$$3 \cdot (2 + 5) = \underline{3 \cdot 2} + \underline{3 \cdot 5}$$

$$3 \cdot 2 + 3 \cdot 5 = 3 \cdot (2 + 5)$$

DAĞILMA VE ORTAK ÇARPAN PARANTEZİ

KESİK ATALIM

1. Verilen şekillerdeki kare sayılarını bir çarpma işlemiyle ifade ediniz. Bulduğunuz işlemi aşağıya not ediniz. Daha sonra verilen şekilleri çizgiler üzerinden tek bir kesikle 2 parçaya ayırınız. (Her bir şekli farklı parçalara ayırdığınızdan emin olunuz.) Ayrılan parçalardaki kare sayısını göstermek için birer çarpma işlemi yazınız.

a. Parçaları ifade eden çarpma işlemlerinin toplamı sizce neyi verir?

b. Bu toplamla, bütün şekli ifade eden çarpma işlemi arasında bir bağ var mıdır?

1.

2.

3.

4.

5.

6.

7.

8.



2. Aşağıda farklı masalar üzerindeki tabaklara konulmuş kırmızı ve yeşil elmalar vardır. Masa üerinde bulunan tabaklarda toplam kaç elma olduğunu iki farklı yöntemle hesaplayınız. Yöntemleriniz benzerliği hakkında neler söyleyebilirsiniz?

1. MASA

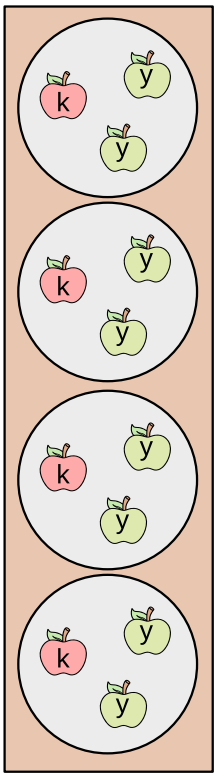

Yöntem - I

Yöntem - II

2. MASA

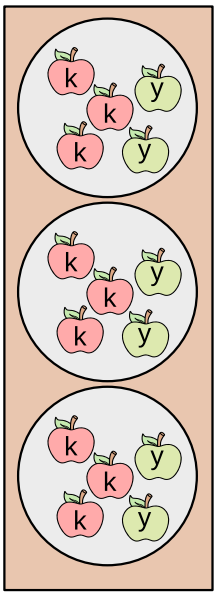

Yöntem - I

Yöntem - II

3. MASA

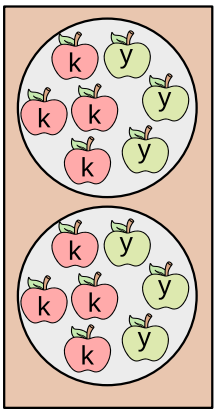

Yöntem - I

Yöntem - II

4. MASA

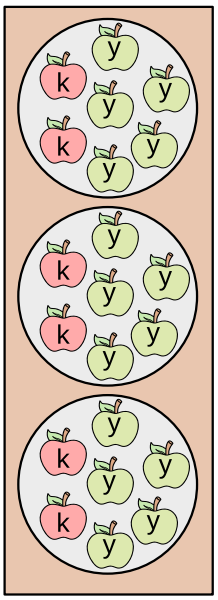

Yöntem - I

Yöntem - II

5. MASA

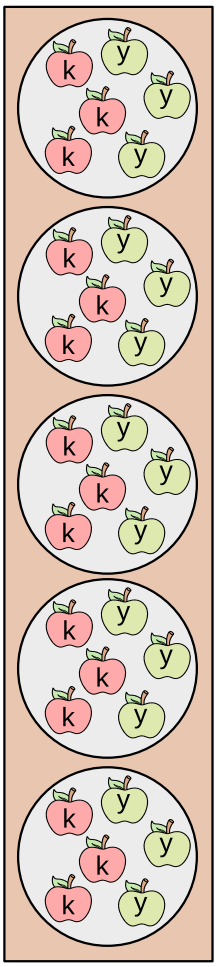

Yöntem - I

Yöntem - II

6. MASA

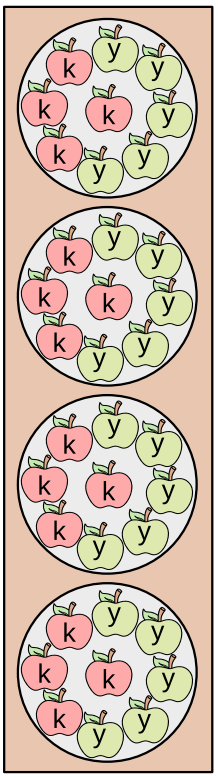

Yöntem - I

Yöntem - II

3. Aşağıda verilen işlemleri dağılma özelliğini kullanarak çözünüz.

a. 5 . (14 + 6) = ...

b. 12 . (6 + 10) = ...

c. (3 + 17) . 8 = ...

d. 3 . (20 - 5) = ...

e. 7 . (12 - 7) = ...

f. (18 - 3) . 5 = ...

g. 6 . (10 + 7) = ...

h. 7 . (12 + 8) = ...

i. (18 - 9) . 10 = ...

j. 14 . (6 - 4) = ...

k. 8 . (15 - 6) = ...

l. (9 - 7) . 12 = ...

m. 7 . (16 - 5) = ...

n. 12 . (25 + 13) = ...

o. (63 - 14) . 20 = ...

4. Aşağıda verilen işlemleri ortak çarpan parantezine alarak çözünüz.

a. 12 . 8 + 12 . 6 = ...

b. 12 . 7 + 10 . 7 = ...

c. 9 . 5 - 9 . 3 = ...

d. 9 . 20 - 20 . 5 = ...

e. 12 . 5 + 12 . 15 + 6 . 7 + 4 . 7 = ...

f. 7 . 9 + 3 . 8 + 3 . 9 + 7 . 8 = ...

g. 48 . 972 + 48 . 28 = ...

h. 32 . 16 + 17 . 77 - 18 . 16 + 17 . 23 = ...

i. 57 . 26 + 128 . 16 + 43 .26 -28 . 16 = ...

j. 63 . 47 + 162 . 53 + 37 . 47 - 62 . 53 = ...

5. Aşağıda verilen işlemleri dağılma özelliğini kullanarak çözünüz.

a. 6 . 59 = ...

b. 3 . 43 = ...

c. 9 . 65 = ...

d. 4 . 51 = ...

e. 8 . 76 = ...

f. 7 . 87 = ...