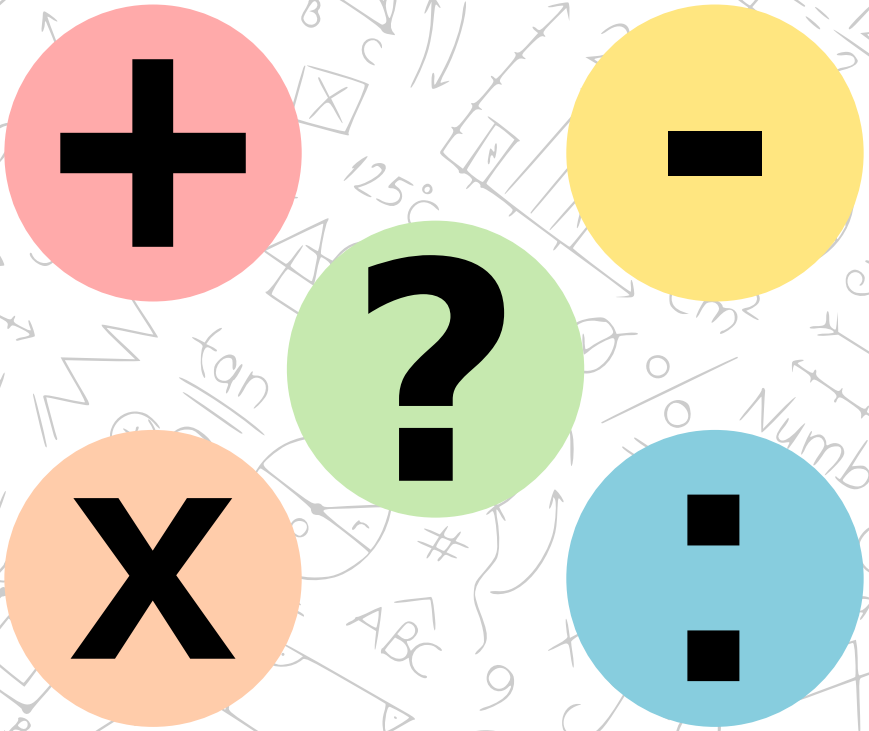

DÖRT İŞLEM TAHMİN

FAZLA MI YOKSA AZ MI?



CİPS	KOLA	SODA	PATATES	SAKIZ	PİZZA	SANDVİÇ
25 KR	75 KR	49 KR	99 KR	18 KR	95 KR	88 KR

1. Yukarıda verilen fiyatlara göre aşağıda satın alınan ürünlerin 2 ₺ den fazla mı az mı olduğunu tahmin ediniz.

a.

b.



c.



d.

e.



f.

g.



h.



i.



j.

PROBLEMDEDE

2. Aşağıda yuvarlak içinde verilen çarpma işlemi altta verilen çarpma işlemlerinden büyük mü küçük mü tahmin ediniz. Daha sonra hesap makinesi kullanarak tahminlerinizi kontrol ediniz.

a. 56 x 33

55 x 35 → B / K
50 x 40 → B / K
60 x 30 → B / K
50 x 45 → B / K

b. 63 x 17

65 x 15 → B / K
60 x 20 → B / K
65 x 20 → B / K
60 x 25 → B / K

c. 428 x 22

470 x 20 → B / K
420 x 15 → B / K
400 x 25 → B / K
430 x 20 → B / K

d. 424 x 17

420 x 20 → B / K
425 x 15 → B / K
430 x 15 → B / K
425 x 20 → B / K

e. 842 x 23

840 x 25 → B / K
845 x 20 → B / K
835 x 30 → B / K
830 x 30 → B / K

PROBLEMDEDE

f. 37 x 33

35 x 35 → B / K
35 x 30 → B / K
40 x 30 → B / K
40 x 35 → B / K

g. 72 x 58

75 x 55 → B / K
80 x 50 → B / K
70 x 60 → B / K
70 x 55 → B / K

h. 273 x 43

280 x 40 → B / K
270 x 45 → B / K
290 x 35 → B / K
275 x 40 → B / K

i. 618 x 34

625 x 30 → B / K
615 x 35 → B / K
620 x 30 → B / K
610 x 35 → B / K

j. 736 x 18

750 x 10 → B / K
730 x 15 → B / K
700 x 20 → B / K
750 x 20 → B / K



3. Yukarıda bir şekerleme mağazasındaki ürünlerin fiyatları verilmiştir. Aşağıdaki ürünleri alan bir kişinin kaç para ödemesi gerektiğine dair 4 farklı tahmin verilmiştir. Gerçek sonuca en yakın olduğunu düşündüğünüz tahmini işaretleyiniz. Sebebini açıklayınız.

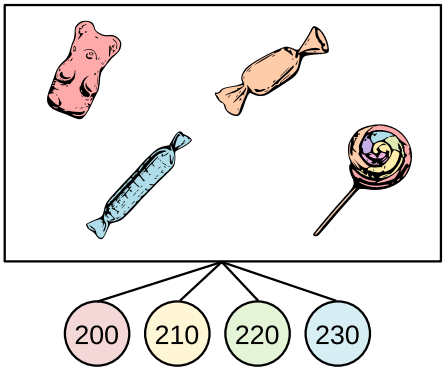

200 210 220 230



200 210 220 230

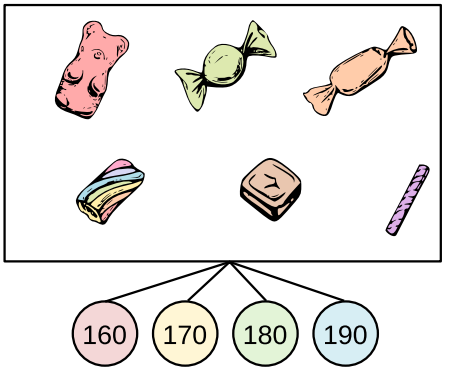

160 170 180 190



325 330 335 340



160 165 170 175



285 290 295 300



250 255 260 265



295 300 305 310



300 305 310 315

4. Aşağıda verilen işlem gruplarından **koyu renkle** yazılan işlem sonucuna en yakın sonuç hangisidir ve sonuca karar vermek için hangi işlemler faydalıdır. Açıklayınız.

4 + 5 + 6 =

400 + 500 + 600 =

400 + 600 =

60 + 30 + 100 =

60 + 20 + 90 =

467 + 528 + 693 =

600 - 300 =

600 - 400 =

85 + 15 =

15 + 13 =

85 - 13 =

613 - 385 =

10 : 7 =

70 : 7 =

7 x 11 =

7 x 12 =

87 : 7 =

6 x 7 =

6 x 8 =

70 x 7 =

60 x 7 =

68 x 7 =

40 x 20 =

50 x 4 =

48 x 2 =

48 x 4 =

50 x 20 =

48 x 24 =

5 x 20 =

5 x 22 =

5 x 10 =

22 x 10 =

2 x 22 =

147 : 22 =

2 + 1 + 5 =

200 + 100 + 500 =

200 + 500 =

50 + 40 + 90 =

40 + 30 + 80 =

247 + 136 + 581 =

500 - 400 =

500 - 300 =

95 + 50 =

5 + 42 =

95 - 48 =

548 - 395 =

100 : 10 =

120 : 12 =

12 x 11 =

12 x 12 =

127 : 12 =

9 x 2 =

9 x 3 =

90 x 20 =

95 x 25 =

93 x 24 =

50 x 20 =

60 x 20 =

58 x 2 =

55 x 20 =

60 x 20 =

58 x 22 =

30 x 6 =

27 x 7 =

18 x 15 =

2 x 27 =

19 x 25 =

185 : 27 =

398 ₺ | 4250 ₺ | 2725 ₺

Ön-Son (Binler Basamağı)
→ 0 + 4 + 2 = 6
yaklaşık 6000 ₺

→

Ön-Son (Yüzler Basamağı)
→ 3 + 2 + 7 = 12
yaklaşık 1200 ₺

→

Toplamda 7200 ₺ den fazla

5. Yukarıda 398 + 4250 + 2725 işleminin ön son yöntemiyle tahmini sonucunu bulmak anlatılmıştır. Bu yöntemi kullanarak aşağıdaki etiketlerin toplamına yönelik tahminlerde bulununuz

5318 ₺
4609 ₺

785 ₺
6928 ₺

1539 ₺
3068 ₺
5824 ₺

986 ₺
8793 ₺
624 ₺

2067 ₺
3818 ₺
962 ₺

PROBLEMDEDE

6246 ₺
3025 ₺
9814 ₺

628 ₺
2781 ₺
849 ₺
6835 ₺

786 ₺
5296 ₺
4256 ₺
8812 ₺

6. Aşağıda verilen sayı doğrularında istenen sayıyı işaretleyip hangi uca yakın olduğuna karar veriniz.

a.

0 — 10

Sayı = 8
Kime Yakın = ...

b.

0 — 10

Sayı = 4
Kime Yakın = ...

c.

0 — 10

Sayı = 3
Kime Yakın = ...

d.

40 — 50

Sayı = 47
Kime Yakın = ...

e.

80 — 90

Sayı = 85
Kime Yakın = ...

f.

20 — 30

Sayı = 26
Kime Yakın = ...

g.

100 — 200

Sayı = 118
Kime Yakın = ...

h.

400 — 500

Sayı = 473
Kime Yakın = ...

i.

700 — 800

Sayı = 749
Kime Yakın = ...

PROBLEMDEDE

j.

300 — 400

Sayı = 375
Kime Yakın = ...

k.

4000 — 5000

Sayı = 4635
Kime Yakın = ...

l.

7000 — 8000

Sayı = 7294
Kime Yakın = ...

m.

6000 — 7000

Sayı = 6999
Kime Yakın = ...

n.

8000 — 9000

Sayı = 8095
Kime Yakın = ...

o.

20000 — 30000

Sayı = 25375
Kime Yakın = ...

p.

50000 — 60000

Sayı = 52975
Kime Yakın = ...

r.

70000 — 80000

Sayı = 78367
Kime Yakın = ...

s.

300000 — 400000

Sayı = 327543
Kime Yakın = ...

7. Aşağıda verilen para koleksiyonunun yaklaşık değeri nedir?



8. Bir konser biletinin fiyatı 37 ₺ dir. 13 kişilik bir grup bu konsere katılırsa yaklaşık kaç ₺ öder?



9. Bir günde 485 km yol alan bir araç bir haftada yaklaşık kaç km yol alır?

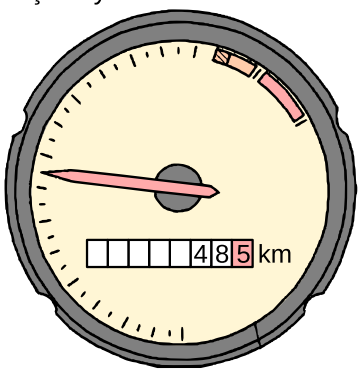

10. 184 ₺ ye satılan bir ürüne indirim yapılmış ve 128 ₺ satılmaya başlanmıştır. Buna göre üründe yaklaşık kaç TL indirim yapılmıştır?

11. Bir okçu ortalama 8 atıştan birini ıskalamaktadır. Ard arda 60 atış yapan bir okçunun yaklaşık kaç atışı ıskalar?

12. Tüm izcilerin yaklaşık kaç rozeti vardır?

İzci Bölüğü	Rozet Sayısı
Kartallar	41
Kaşifler	29
Yavru Kurtlar	63
Boz Ayılar	17
Panterler	65
Cesurlar	48
Dağcılar	85

13. Adisyonda yazan yemekleri yiyen bir kişi yaklaşık kaç ₺ öder?

Ürün	Fiyat(₺)
Mercimek Çorbası	14.10
Kuru Fasulye	11.50
Hamsi	8.79
Salata	6.15
Puding	2.00
Baklava	5.75

PROBLEMDEDE

14. Bir araç 325 km yol aldığında 11 litre benzin yakmıştır. Buna göre Araç 1 litre benzinle yaklaşık kaç km yol gidebilir?



15. 36 kartpostal içeren bir kutu 7 ₺ dir. Buna göre her kart yaklaşık kaç ₺ dir?



16. Aşağıda verilen sıçrama sayısında amaca ulaşmak için sıçramaya hangi sayıdan başlayacağınıza ve ne kadar sıçramanız gerektiğine karar veriniz. Daha sonra kararınızın mantıklı olup olmadığı hakkında açıklama yapınız.

Sıçrama Sayısı	Amaç	Sıçrama Başlangıcı	Tahmini Sıçrama	Tahmin Mantıklı Mı?
5	72			
11	97			
7	150			
14	135			
47	1200			
24	375			
18	580			
22	490			
33	1355			
15	637			
21	760			
9	340			
12	1100			
34	1225			

17. Aşağıdaki hedeflere ulaşamak için bir başlangıç sayısı verilmiştir. Bu sayı ile işlemler yaparak (toplama, çıkarma, çarpma veya bölme) hedef aralıklara ulaşınız.

a. Başlangıç = 153
Hedef Aralık = 790 - 800

b. Başlangıç = 216
Hedef Aralık = 400 - 410

c. Başlangıç = 53
Hedef Aralık = 215 - 220

d. Başlangıç = 18
Hedef Aralık = 25 - 30

e. Başlangıç = 41
Hedef Aralık = 630 - 635

f. Başlangıç = 129
Hedef Aralık = 475 - 485

g. Başlangıç = 67
Hedef Aralık = 1100 - 1200

h. Başlangıç = 143
Hedef Aralık = 3500 - 3600

i. Başlangıç = 39
Hedef Aralık = 1600 - 1700

j. Başlangıç = 20
Hedef Aralık = 25 - 30

k. Başlangıç = 39
Hedef Aralık = 50 - 60

l. Başlangıç = 123
Hedef Aralık = 15 - 20

PROBLEMDEDE
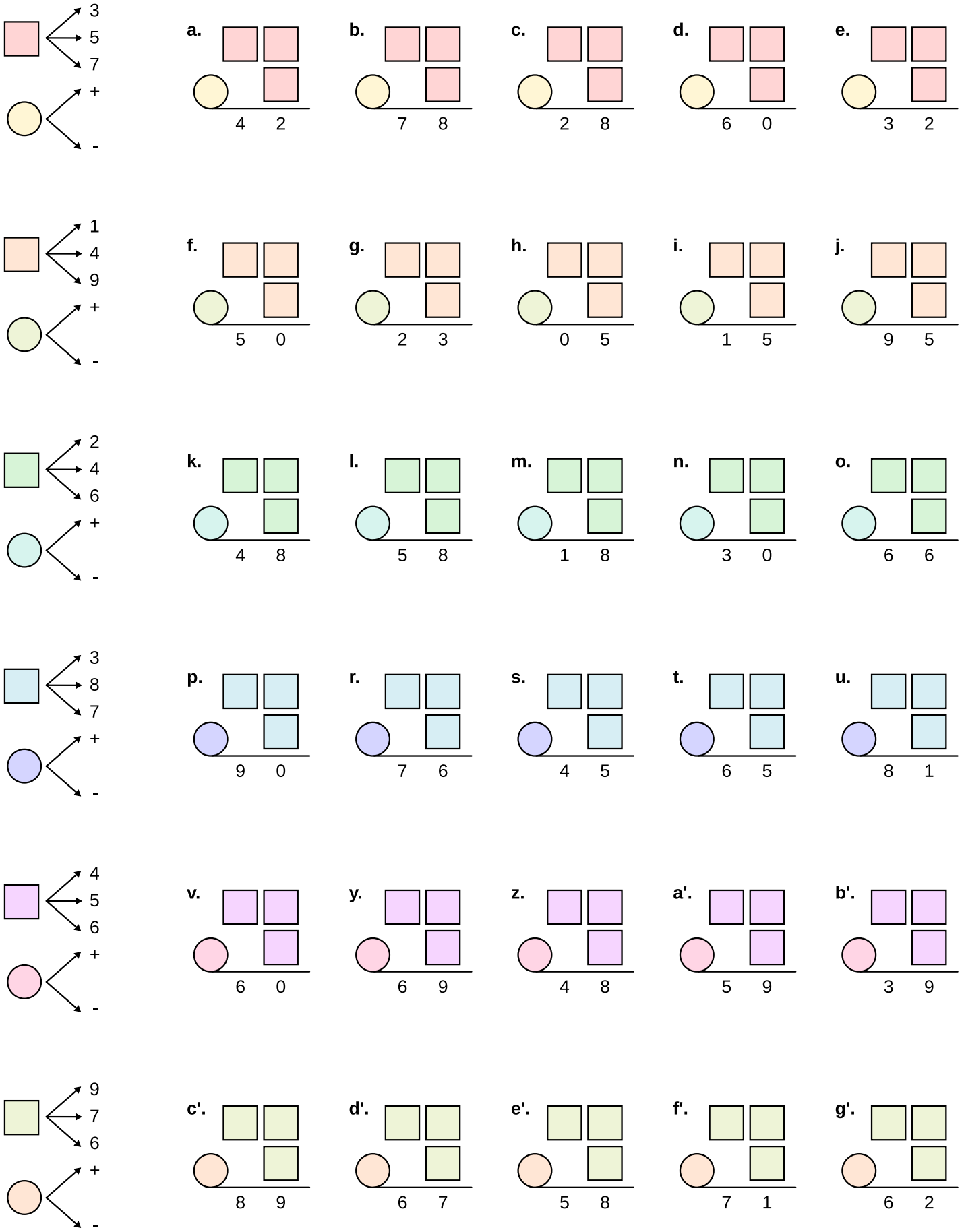
18. Aşağıda verilen kareler yerine gösterilen sayıları, daireler yerine toplama veya çıkama işlemlerinden uygun olanları yazarak aşağıdaki işlemleri tamamlayalım.