

HACİM VE ÖLÇÜ BİRİMLERİ

HANGİ KUTU DAHA BÜYÜK

1. Aşağıda kenar uzunlukları verilen kutulardan hangisi daha büyüktür. Neden?

Kutu Ne Kadar Büyük?

a.

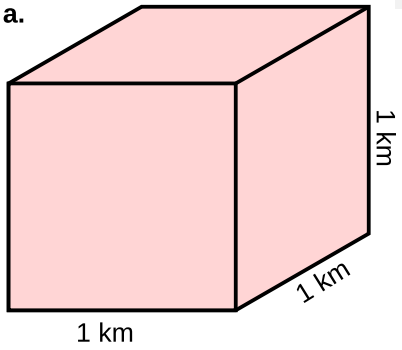

Kutu Ne Kadar Büyük?

b.

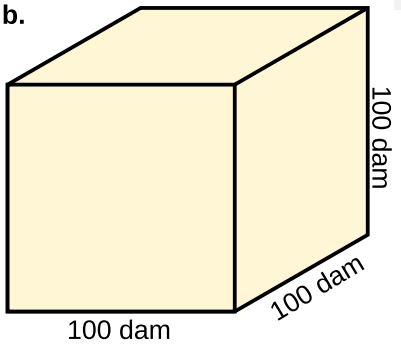

Kutu Ne Kadar Büyük?

c.

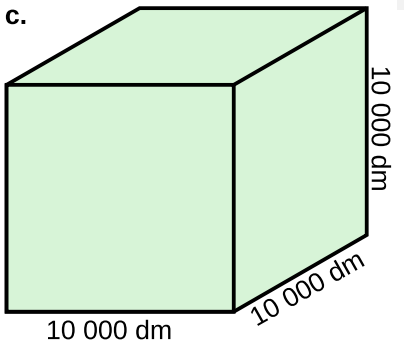

Kutu Ne Kadar Büyük?

d.

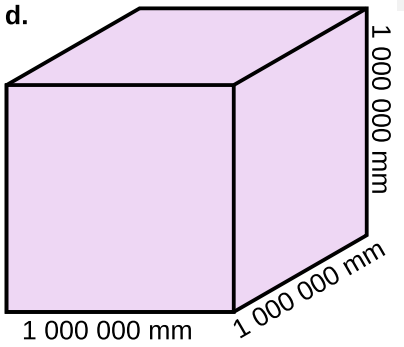

PROBLEMDEDE

Kutu Ne Kadar Büyük?

e.

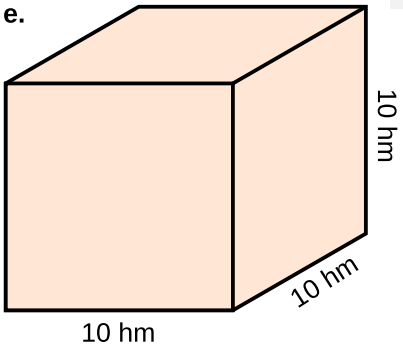

Kutu Ne Kadar Büyük?

f.

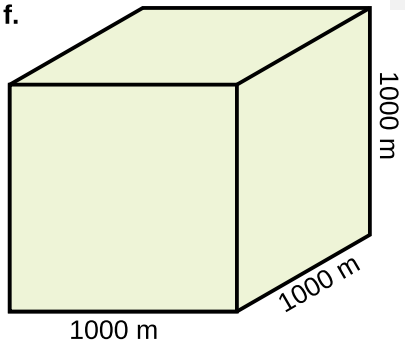

Kutu Ne Kadar Büyük?

g.

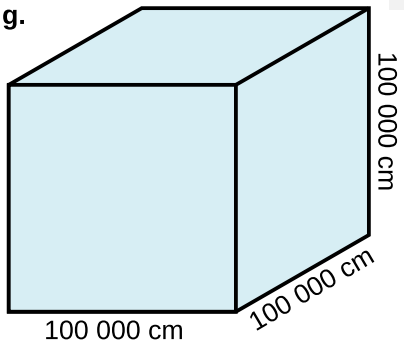

h. Bir hacimin ne kadar büyük olduğunu nasıl ifade ederiz?
i. Hacim ölçmek için hangi birimleri kullanırız?
j. Hacim ölçü birimlerini bir birine nasıl dönüştürebiliriz?

2. Verilen ölçü birimlerini uygun yerlere yerleştiriniz.

km^3 , hm^3 , cm^3 , mm^3 , dm^3 , dam^3 , m^3

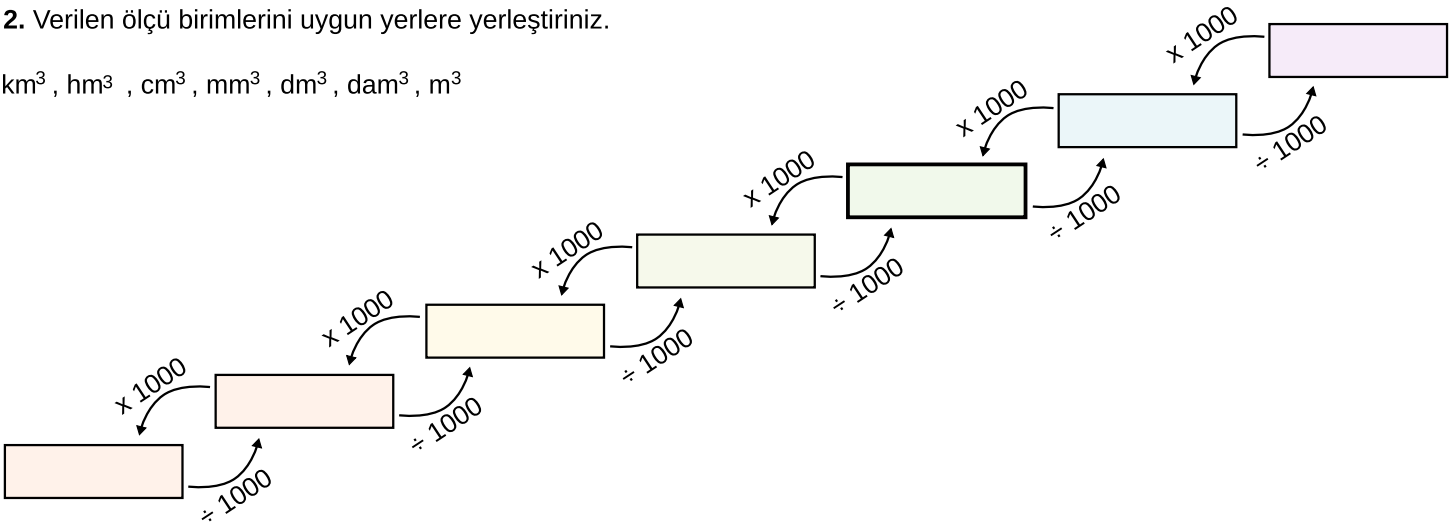

11. Aşağıda verilen hacim ölçü birimlerini bir birine dönüştürünüz.

a. 2,5 m^3 = ... dm^3

b. 0,75 m^3 = ... cm^3

c. 43 000 cm^3 = ... dm^3

d. 5 400 000 000 cm^3 = ... m^3

e. 3,4 m^3 = ... cm^3

f. 0,005 m^3 = ... dm^3

g. 235 cm^3 = ... dm^3

h. 210 000 cm^3 = ... m^3

i. 400 dm^3 = ... m^3

j. 0,02 dm^3 = ... cm^3

k. 1 m^3 = ... dm^3

l. 2 m^3 = ... cm^3

m. 30 m^3 = ... mm^3

n. 7 dm^3 = ... cm^3

o. 0,025 cm^3 = ... mm^3

p. 0,00021 dm^3 = ... mm^3

r. 5,6 m^3 = ... dm^3

s. 681 cm^3 = ... mm^3

t. 72 dm^3 = ... mm^3

u. 200 000 mm^3 = ... cm^3

v. 400 000 000 mm^3 = ... dm^3

y. 80 000 dm^3 = ... m^3

z. 200 cm^3 = ... dm^3

a'. 50 000 cm^3 = ... m^3

b'. 730 000 mm^3 = ... dm^3

c'. 7 000 000 000 mm^3 = ... m^3

d'. 0,0004 dm^3 = ... mm^3

e'. 900 000 cm^3 = ... m^3

PROBLEMDEDE

f'. 6m – 418 dm^3 = ... dm^3

g'. 0,25 cm^3 + 41 mm^3 = ... mm^3

h'. 1000 cm^3 + 4 m^3 = ... dm^3

i'. 18,5 m^3 + 12 m^3 = ... dm^3

j'. 6000 dm^3 + 7 000 000 cm^3 = ... m^3

k'. 8 m^3 - 1250 dm^3 = ... dm^3

l'. 0,6 cm^3 - 21 mm^3 = ... mm^3

m'. 1000 cm^3 + 4 m^3 = ... dm^3

3. Aşağıda verilen problemleri çözünüz.

a. 1 cm^3 hacme sahip küp çikolatalar hacmi 1 dm^3 olan küp şeklindeki kutulara dolduruluyor. Bu kutular ise boyutları 2 m, 3 m ve 4 m olan dikdörtgenler prizması şeklindeki depoya boş yer kalmayacak şekilde yerleştiriliyor. Buna göre;

- Depoda kaç kutu vardır?
- Depoda kaç çikolata vardır?

b. Aşağıda ayrıt uzunlukları verilen dikdörtgenler prizması şeklindeki saksılar toprak ile tamamen doludur. Hangisindeki toprak miktarı daha fazladır?

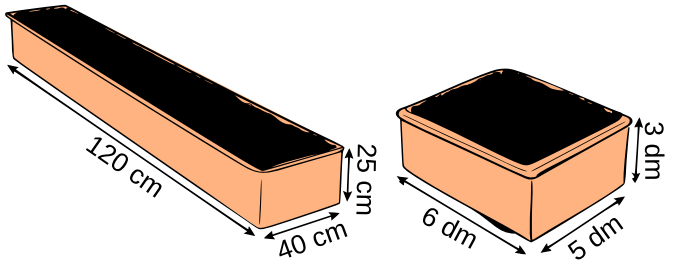

c. Aşağıda boyutları verilen dikdörtgenler prizmalarının hacimlerini cm^3 , dm^3 ve m^3 cinsinden bulunuz.

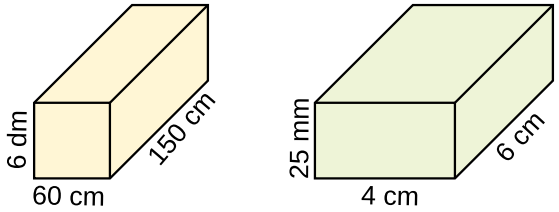

..... cm^3
..... dm^3
..... m^3

..... cm^3
..... dm^3
..... m^3

d. Hacimleri 650 dm^3 ve 2 m^3 olan 2 küpün içine hacmi 1 cm^3 olan en fazla kaç küp yerleştirilebilir?

PROBLEMDEDE

e. Aşağıdaki dikdörtgenler prizması eşit büyüklükte küplere ayrılmak isteniyor. En az kaç küpe ayrılabilir?

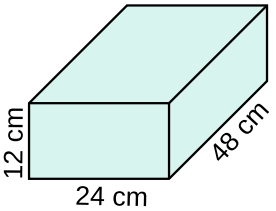

f. Hacmi 1 dm^3 olan kare prizmanın yüksekliği 4 cm ise bir taban ayrıtının uzunluğu kaç cm'dir?

g. Aşağıdaki yapının hacmi kaç mm^3 tür?

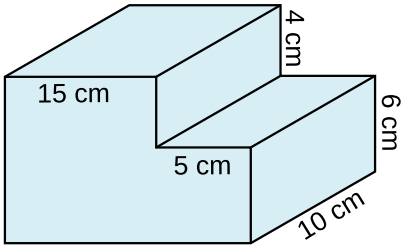

h. Boyutları 10 cm, 25 cm ve 2 m olan dikdörtgenler prizması şeklindeki kalaslar kamyonun kasasına yerleştirilecektir. Kasanın genişliği 2 m, uzunluğu 6 m ve yüksekliği 150 cm olduğuna göre kamyonun kasasına en fazla kaç tane kalas yerleştirilebilir?
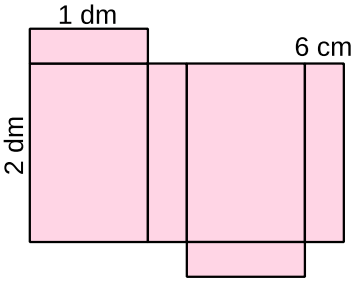
i. Yandaki yapının hacmi kaç cm^3 tür?