ONDALIK GÖSTERİM

ProblemDede

M.5.1.5.6. Ondalık gösterimleri verilen sayılarla toplama ve çıkarma işlemleri yapar.

a) Toplama ve çıkarma işlemlerinde virgüllerin neden alt alta gelmesi gerektiği ele alınır.
b) Toplama ve çıkarma işlemlerinin kesirlerle yapılan işlemlerle ilişkilendirilmesi gibi durumlar da incelenir.
c) Paralarımızla ilgili lira-kuruş ilişkisini ifade eden ondalık gösterim çalışmalarına da yer verilir.

ProblemDede

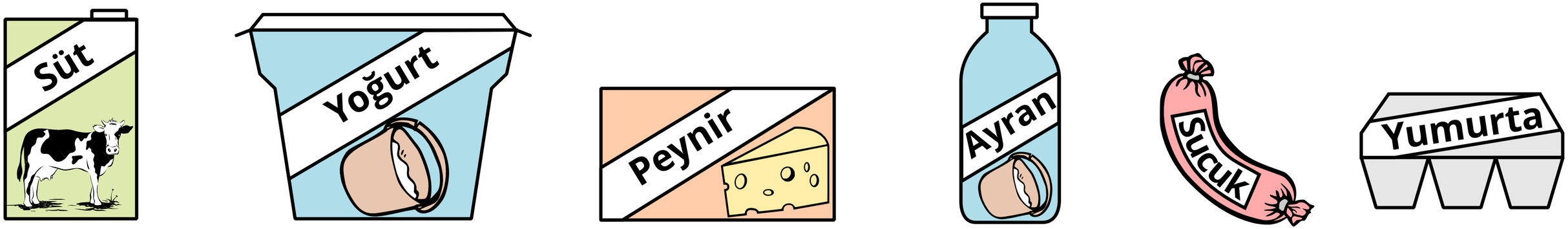

7,5 TL | 9,5 TL | 10,25 TL | 8 TL | 12,9 TL | 6,85 TL

1. Yukarıda bazı ürünlerin fiyatları verilmiştir. Aşağıda verilen soruları bu fiyatlara göre cevaplayınız. Soruları cevaplarken yaptığınız işlemleri açıklayınız.

a. Bir paket ayran ve bir paket süt alsanız kaç TL ödersiniz?

b. Bir paket ayran ve bir paket peynir alsanız kaç TL ödersiniz?

ProblemDede



7,5 TL



9,5 TL

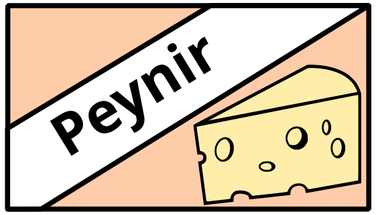

10,25 TL

8 TL



12,9 TL



6,85 TL

c. Bir paket süt ve bir paket yoğurt alsanız kaç TL ödersiniz?

ç. Bir paket yoğurt ve bir sucuk alsanız kaç TL ödersiniz?

ProblemDede



7,5 TL



9,5 TL

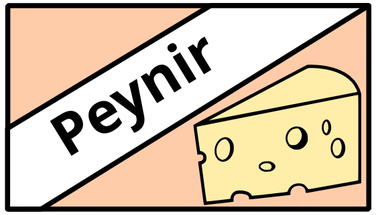

10,25 TL

8 TL



12,9 TL

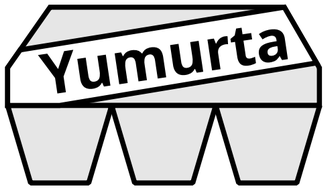

6,85 TL

d. Bir paket peynir ve bir paket yumurta alsanız kaç TL ödersiniz?

e. Bir paket süt ve bir paket peynir alsanız kaç TL ödersiniz?

ProblemDede



7,5 TL



9,5 TL

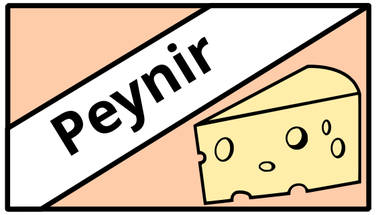

10,25 TL

8 TL



12,9 TL

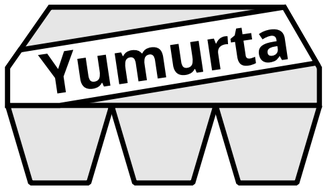

6,85 TL

f. Bir paket yoğurt ve bir paket yumurta alsanız kaç TL ödersiniz?

g. Bir paket sucuk ve bir paket yumurta alsanız kaç TL ödersiniz?

ProblemDede

BİLGİ

Ondalık sayılarla toplama işlemi yapılırken aynı basamaklar ve virgüller alt alta gelecek şekilde yazılır. Doğal sayılarda toplama işlemindeki gibi işlem yapılır. Eksik basamaklar varsa 0 (sıfır) eklenebilir. Sonuca virgüllerin hizasında virgül eklenir.

5,7 + 4,55 işlemini yapalım.

$$\begin{array}{r} {\scriptstyle 1} \\ 5,70 \\ +\ 4,55 \\ \hline 10,25 \\ {\scriptstyle 10\ 12} \end{array}$$

← Eksik kalan basamak için bir sıfır

ProblemDede

2. Bir sütçü birinci gün 33,2 L, ikinci gün ise 61,55 L süt satmıştır. Sütçü, iki günde toplam ne kadar süt satmıştır?

ProblemDede

3. Aşağıdaki iş makinesi toplam kaç kilogramlık yük taşımaktadır?



ProblemDede

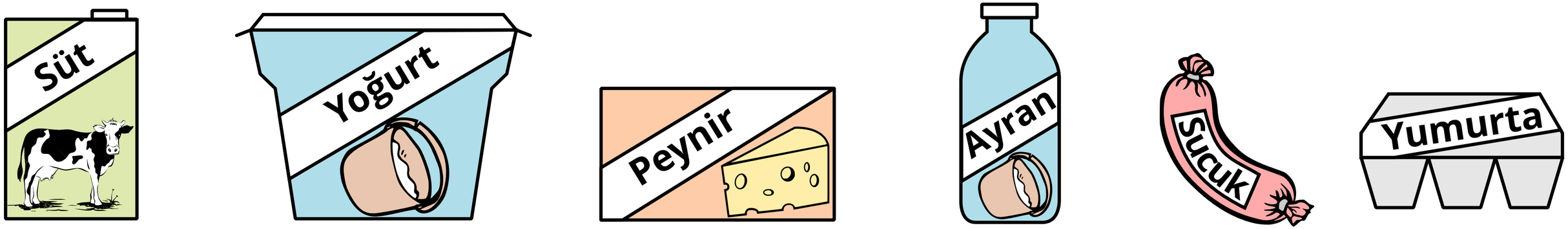

7,5 TL | 9,5 TL | 10,25 TL | 8 TL | 12,3 TL | 6,85 TL

4. Yukarıda bazı ürünlerin fiyatları verilmiştir. Aşağıda verilen soruları bu fiyatlara göre cevaplayınız. Soruları cevaplarken yaptığınız işlemleri açıklayınız.

a. Bir paket ayran, bir paket sütten kaç TL pahalıdır?

b. Bir paket yoğurt, bir paket ayrandan kaç TL pahalıdır?

ProblemDede



7,5 TL



9,5 TL

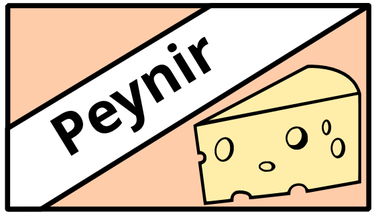

10,25 TL

8 TL



12,3 TL



6,85 TL

c. Bir paket yoğurt, bir paket sütten kaç TL pahalıdır?

ç. Bir sucuk, bir paket yoğurttan kaç TL pahalıdır?

ProblemDede



7,5 TL



9,5 TL

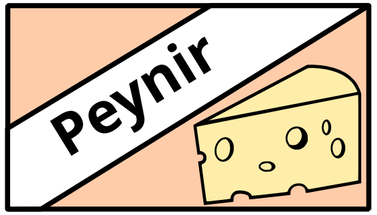

10,25 TL

8 TL



12,3 TL

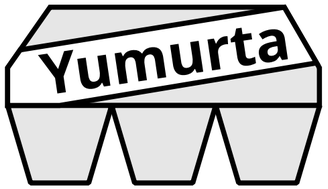

6,85 TL

d. Bir paket peynir, bir paket yumurtadan kaç TL pahalıdır?

e. Bir paket peynir, bir paket yoğurttan kaç TL pahalıdır?

ProblemDede



7,5 TL



9,5 TL

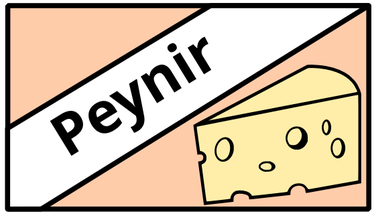

10,25 TL

8 TL



12,3 TL



6,85 TL

f. Bir paket süt, bir paket yumurtadan kaç TL pahalıdır?

g. Bir sucuk, bir paket yumurtadan kaç TL pahalıdır?

ProblemDede

BİLGİ

Ondalık sayılarla çıkarma işlemi yapılırken aynı basamaklar ve virgüller alt alta gelecek şekilde yazılır. Doğal sayılarda çıkarma işlemindeki gibi işlem yapılır. Eksik basamaklar varsa 0 (sıfır) eklenebilir. Sonuca virgüllerin hizasında virgül eklenir. (Tıpkı ondalık kesirleri topladığımız gibi.)

5,7 - 4,55 işlemini yapalım.

$$
\begin{array}{rccc}
 & & {\scriptstyle 6} & {\scriptstyle 10} \\
 & 5, & \cancel{7} & 0 \\
- & 4, & 5 & 5 \\
\hline
 & 1, & 1 & 5
\end{array}
$$

← Eksik kalan basamak için bir sıfır

ProblemDede

5. Seda’nın 10,55 TL parası vardır. Marketten 3,5 TL’ye gofret alan Seda’nın kaç TL’si kalmıştır?



ProblemDede

6. Öykü’nün cebinde 2,7 TL parası vardır. Öykü, parasının bir kısmı ile silgi almış ve cebinde 1,45 TL'si kalmıştır. Buna göre silgi kaç TL'dir?

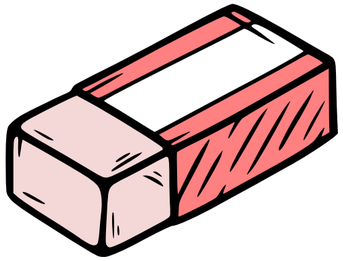

ProblemDede

7. Berk, yük kapasitesi 180 kg olan bir asansörle aşağıda ağırlıkları verilen kolileri üst kata çıkarmak istiyor. Berk 50 kg olduğuna göre kolilerle birlikte üst kata çıkabilir mi?



ProblemDede

8. Fiyatı 95 TL olan bir paltoyu almak için Selin geçen ay 33,6 TL; bu ay 22,5 TL biriktirmiştir. Selin paltoyu alabilmek için kaç TL daha biriktirmelidir?

ProblemDede

9. Berbere giden Salih çıkışta 10 TL para verdiğinde, berber bozukluğu olmadığını söyleyerek 5 TL para üstü verebilmek için Salih'ten 1,5 TL daha istemiştir.
Buna göre Salih kaç TL'ye tıraş olmuştur?

10. Arıcılıkla uğraşan İdris Bey'in 3 bal kovanı vardır. 60 kg'lık bal siparişi alan İdris Bey, birinci kovandan 21,6 kg, ikinci kovandan 28,45 kg bal aldığına göre siparişi tamamlayabilmek için üçüncü kovandan en az kaç kg bal almalıdır?



ProblemDede

11. Bir markette yapılan kampanyaya göre 30 TL ve üzerinde alışveriş yapan müşterilere şampuan 9,95 TL yerine 3,50 TL'ye satılmaktadır. Buna göre,

a. 27,85 TL'lik alışveriş yapan Erdem Bey'in bu kampanyadan yararlanabilmesi için kaç TL'lik daha alışveriş yapması gerekir?

b. Şampuanın gerçek fiyatı, kampanyalı fiyatından kaç TL fazladır?

ProblemDede

12. Semih Bey daha sağlıklı olmak için bir beslenme uzmanı eşliğinde kilo vermektedir. Aşağıda Semih Bey'in 4 ay boyunca kilosuyla ilgili bilgi yer almaktadır.

Başlangıç	**1 Ay**	**2 Ay**	**3 Ay**	**4 Ay**
86,4 kg	82,5 kg	78,9 kg	73,4 kg	69,7 kg

Buna göre,

a. Semih Bey en fazla hangi iki ay arasında kg vermiştir?

b. Semih Bey başlangıçtan 4. ayın sonuna kadar toplamda kaç kg vermiştir?

c. Semih Bey 5. ayda ideal kilosu olan 65 kg'a ulaştığına göre toplamda kaç kg vermiştir?

ProblemDede

13. Aşağıda uzun atlama yarışlarının yapıldığı bir pistin ölçüleri verilmiştir. Sporcuların dereceleri, koşu yolunda koştuktan sonra tahtada sıçrayıp kum piste atlayarak düştükleri noktaya göre belirlenmektedir.

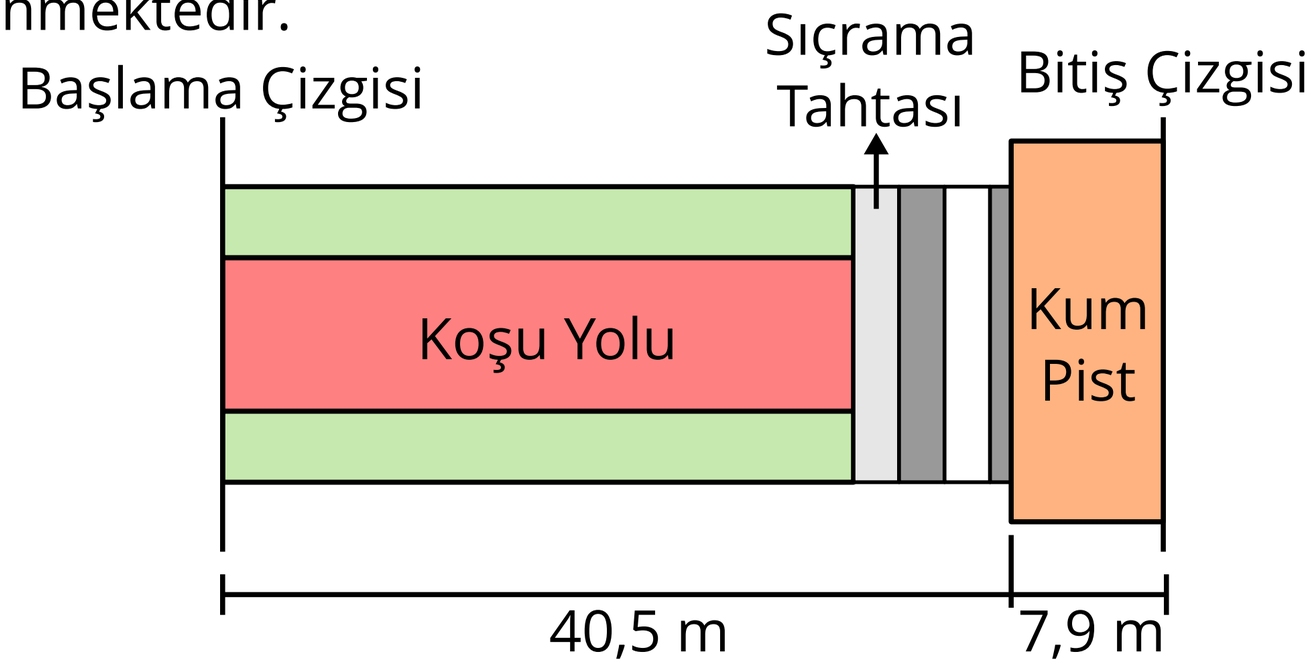

Başlama çizgisinden yarışa başlayan bir sporcu kum pistte bitiş çizgisine uzaklığı 1,4 m olan bir noktaya düşerek yarışı ikinci olarak bitiriyor. Yarışı birinci olarak bitiren sporcu ise ikinci olan yarışmacının düştüğü noktadan 0,2 m kadar bitiş çizgisine daha yakın bir noktaya düşüyor. Buna göre birinci olan sporcunun kum pistte düştüğü noktanın başlama çizgisine olan uzaklığı kaç metredir?

ProblemDede

14. Ali ondalık gösterimleri modellemek için elinde bulunan üç geometri şeridini aşağıdaki gibi tanımlamaktadır.

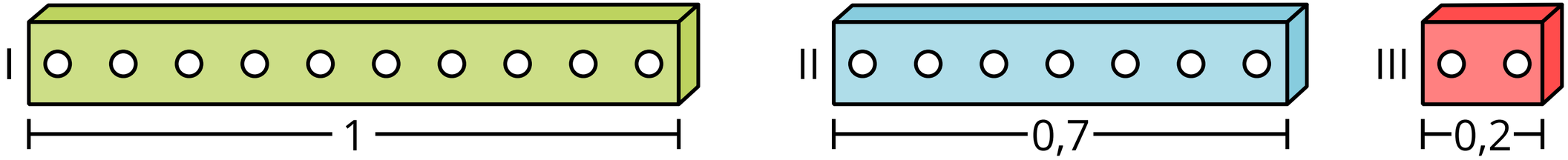

Bu üç geometri şeridini yan yana ya da birbirinin önüne koyarak toplamlarından veya farklarından sayılar elde etmektedir. Örneğin, II ve III numaralı geometri şeritlerini yan yana koyduğunda toplamlarından 0,9 ondalık gösterimini, I ve III numaralı geometri şeritlerini birbirinin önüne koyduğunda farklarından 0,8 ondalık gösterimini elde ediyor.

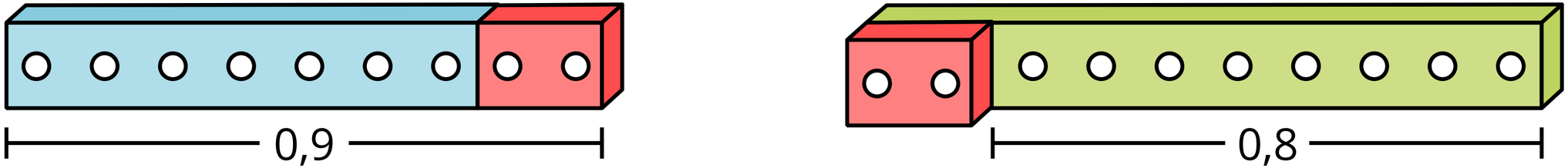

Buna göre Ali bu geometri şeritlerini birer kez kullanarak aşağıdaki ondalık gösterimlerden hangisini elde edemez?

A) 1,9 **B)** 1,4 **C)** 0,3 **D)** 0,1

ProblemDede

15. Doruk bir A4 kağıdını aşağıda gösterildiği gibi ortadan ikiye katlıyor ve kesikli çizgiyle gösterilen yerden kesiyor.

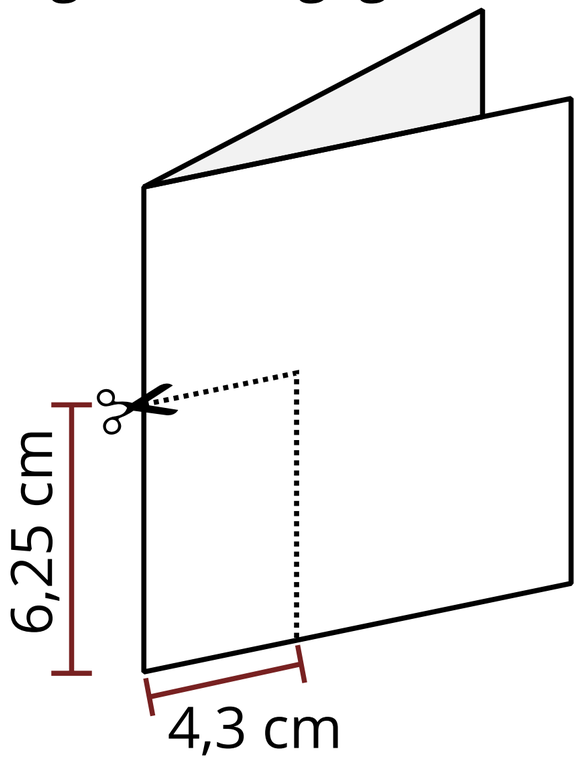

Daha sonra kestiği küçük parçayı açıyor. Doruk'un kestiği bu parçanın çevresi kaç santimetredir?

ProblemDede