YÜZDELER

ProblemDede

M.5.1.6.1. Paydası 100 olan kesirleri yüzde sembolü (%) ile gösterir.

Yüzde sembolünü (%) anlamlandırmaya yönelik çalışmalara yer verilir. %100'den küçük olan yüzdelik ifadeler ile sınırlı kalınır.

ProblemDede

1. Aşağıda günlük hayatta karşınıza çıkabilecek ifadeler verilmiştir. Bu ifadeleri kesir ondalık ve" % " sembolüyle gösteriniz.



a. Telefonumun bataryası yüzde beş kaldı. Her an kapanabilir.

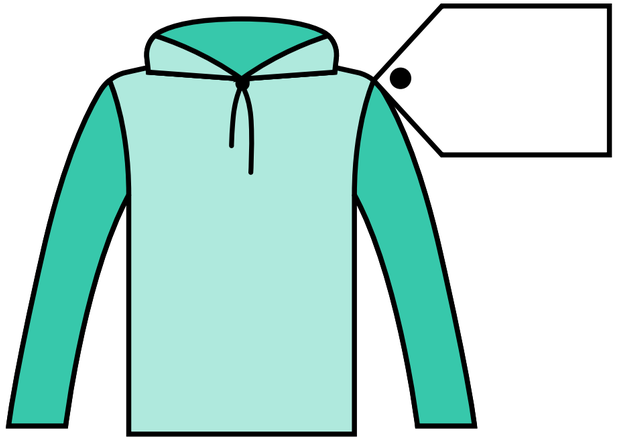

b. Kıyafetlerde yüzde altmışa varan indirim varmış. Hadi gidelim.

c. Söylediklerim yüzde yüz doğru.

ProblemDede



ç. Yarından itibaren geçerli olacak şekilde akaryakıta yüzde on zam yapıldı.

d. Bu futbolcu tam bir şutor! Şutları yüzde yetmiş oranında gol oluyor.



e. Sigorta şirketleri kaza oranının yüzde altıdan yüzde sekize çıkması üzerine kaza sigortası fiyatlarına yüzde yirmi zam yaptı.

ProblemDede



f. Lira bugün Euro karşısında yüzde iki değer kazandı.



g. Film indiriyorum yüzde doksan üç oldu, bitsin gidelim.

ğ. Muhtar Mehmet verilen oyların yüzde otuz üçünü alırken, oyların yüzde on beşi geçersiz sayıldı.



h. Barajlardaki su oranı yüzde on beşin altına indi. Su kesintisi kapıda.

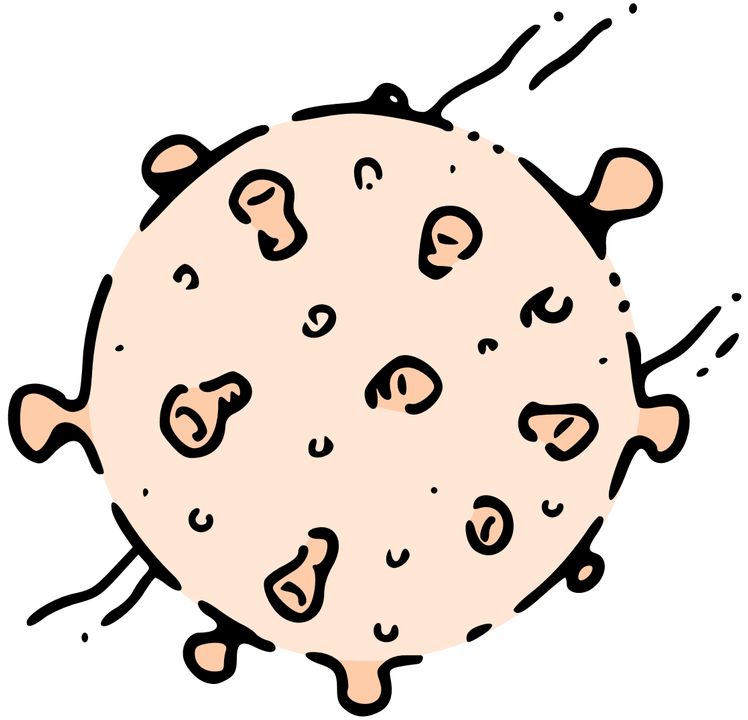

ı. Covid 19 virüsüne yakalananların yüzde doksan beşi iyileşti.



i. Türkiye Çek Cumhuriyeti'yle oynadığı maçların yüzde kırk ikisini kazanırken, maçların yüzde yirmi biri berabere bitti.

j. Bir okçu yüzde on altı olasılıkla hedefi on ikiden vurmaktadır.

2. Selma Öğretmen ve öğrencileri Orman Haftası'nda sınıfları adına 100 adet ağaç dikmişlerdir. Ağaçların 25 tanesi meşe olduğuna göre meşe ağaçlarının bütün ağaçların ne kadarı olduğunu kesir, ondalık ve yüzde olarak ifade ediniz.

ProblemDede

3. Bir grup bisikletçi 100 km'lik bir yolun 55 km'sini gittikten sonra mola vermiştir. Bisikletçilerin gittikleri yolun bütün yolun ne kadarı olduğunu kesir, ondalık ve yüzde olarak gösteriniz.

ProblemDede

4. Fiyatı 100 TL olan bir penyeye 30 TL indirim yapılmıştır. İndirim miktarını kesir, ondalık ve yüzde olarak ifade ediniz.



ProblemDede

5. Aşağıda verilen şekillerdeki boyalı alanları kesir, ondalık ve yüzde olarak ifade ediniz.

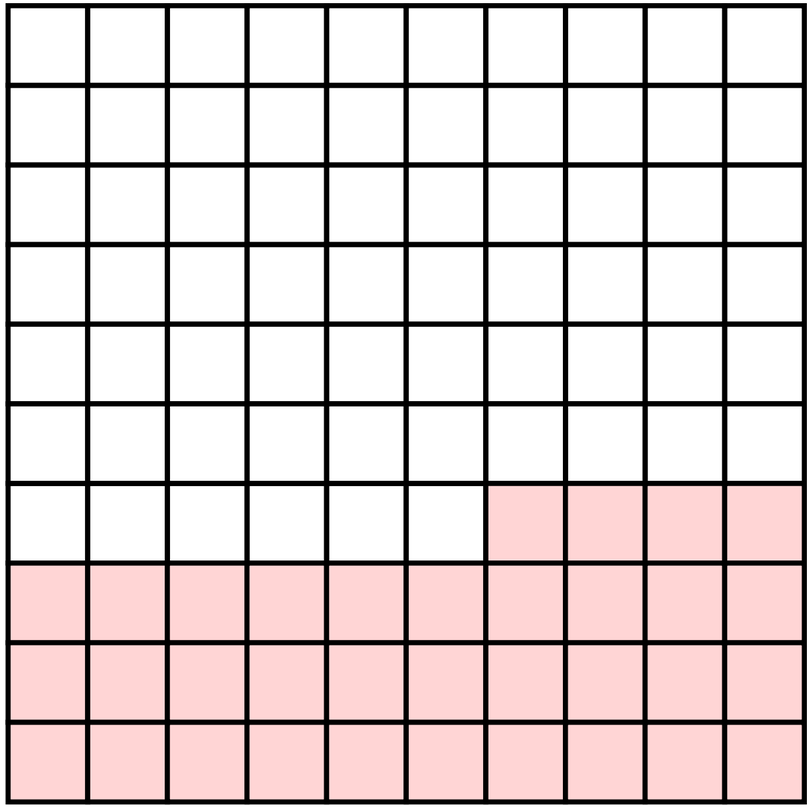

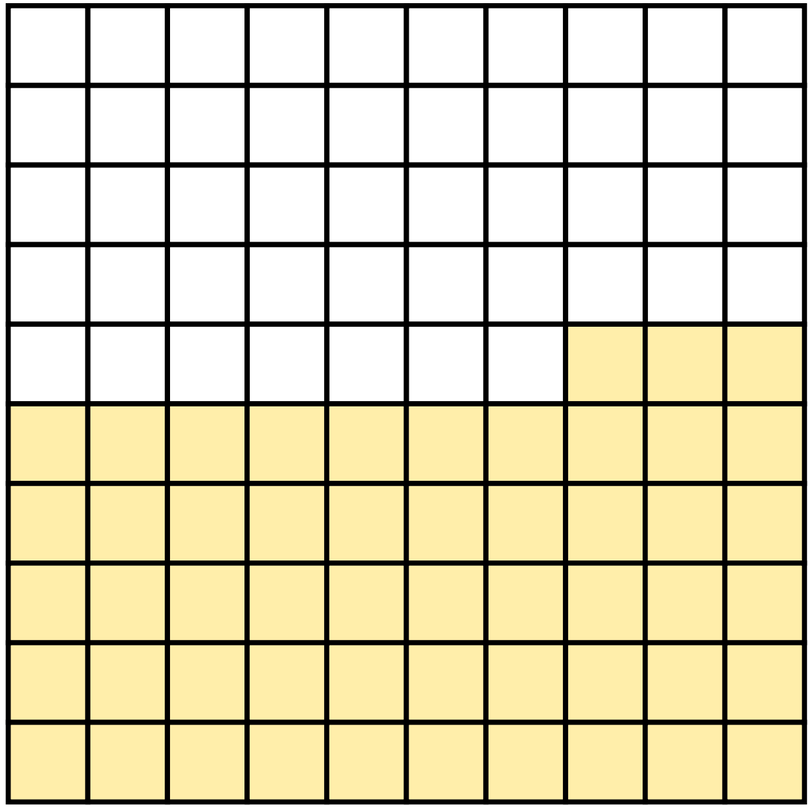

ProblemDede