YÜZDELER

ProblemDede

M.5.1.6.2. Bir yüzdelik ifadeyi aynı büyüklüğü temsil eden kesir ve ondalık gösterimle ilişkilendirir, bu gösterimleri birbirine dönüştürür.

Sözü edilen ilişkileri anlamayı kolaylaştırıcı modellerle yapılacak çalışmalara yer verilir.

ProblemDede

1. Bir tiyatro oyunu için satışa çıkarılan her 50 biletten 49'u satılmıştır. Satılan biletlerin bütün biletlerin ne kadarı olduğunu kesir, ondalık ve yüzde olarak ifade ediniz.



ProblemDede

2. Fırat 25 sorunun sorulduğu bir sınavda soruların tamamını cevaplamıştır. Fırat 20 soruyu doğru cevapladığına göre yanlış cevap verdiği soruların bütün sorunların ne kadarı olduğunu kesir, ondalık ve yüzde olarak ifade ediniz.

3. Erhan Bey, bahçesini beş eş parçaya bölmüş ve bahçenin üç parçasına domates ekmiştir. Domates ekili kısmın bütün bahçenin ne kadarı olduğunu kesir, ondalık ve yüzde olarak ifade ediniz.



ProblemDede

4. Bir çiftlikteki 25 hayvandan 6 tanesi tavuktur. Tavukların bütün hayvanların ne kadarı olduğunu kesir, ondalık ve yüzde olarak ifade ediniz.



ProblemDede

5. Aşağıda oturma planı verilen yolcu otobüsünün boş kalan koltuklarının bütün koltukların ne kadarı olduğunu kesir, ondalık ve yüzde olarak ifade ediniz.



ProblemDede

6. Maaşı 700 TL olan Onur Bey'in ev kirası 210 TL'dir. Onur Bey'in ev kirasının maaşının ne kadarı olduğunu kesir, ondalık ve yüzde olarak ifade ediniz.



ProblemDede

7. Bir mağaza, hafta sonu alışverişe gelen ilk 400 müşterisi arasından çekilişle 80 kişiye sinema bileti hediye edecektir. Mağazanın, sinema bileti hediye edeceği müşterilerin alışverişe gelen müşterilerin ne kadarı olduğunu kesir, ondalık ve yüzde olarak ifade ediniz.



ProblemDede

8. Bir otomobil fabrikasında üretilen 16 000 araçtan 160 tanesinde motor arızası tespit edilmiştir. Buna göre motor arızasına sahip araçların bütün araçların ne kadarı olduğunu kesir, ondalık ve yüzde olarak ifade ediniz.

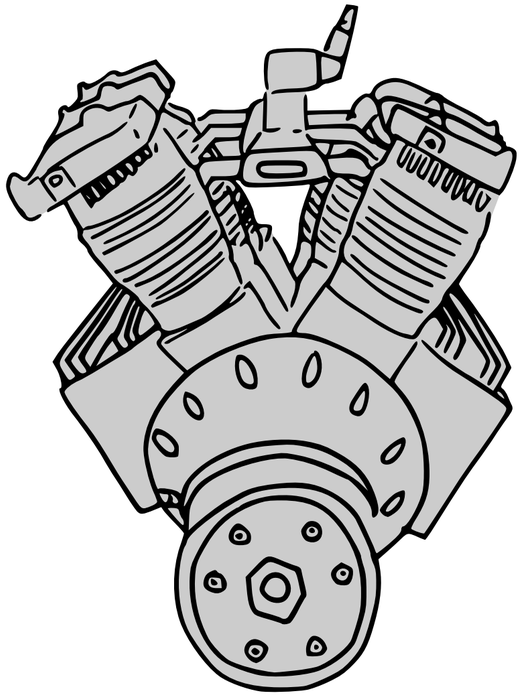

ProblemDede

9. Aşağıdaki klavyede harflerden sesli harflerin bütün harflerin ne kadarı olduğunu kesir, ondalık ve yüzde olarak ifade ediniz.



ProblemDede

10. Bir okul gezisine katılan 75 kişiden 60'ı öğrencidir. Buna göre öğrencilerin, geziye katılanların ne kadarı olduğunu kesir, ondalık ve yüzde olarak ifade ediniz.



ProblemDede

11. Süleyman kütüphaneden ödünç aldığı 240 sayfalık kitabın 60 sayfasını okumuştur. Buna göre okunan sayfaların bütün kitabın ne kadarı olduğunu kesir, ondalık ve yüzde olarak ifade ediniz.



ProblemDede

12. Aşağıdaki tabloda verilen ifadeleri istenilen türlere dönüştürünüz.

Kesir	Ondalık	Yüzde
$\frac{23}{100}$		
	0,75	
		%23
	0,36	
$\frac{7}{10}$		
		%20
$\frac{4}{50}$		

Kesir	Ondalık	Yüzde
	0,45	
		%85
	0,72	
$\frac{21}{25}$		
	0,7	
		%32
$\frac{19}{20}$		

ProblemDede

Kesir	Ondalık	Yüzde
	0,2	
		%2
		%100
$\frac{1}{5}$		
	0,1	
		%12
$\frac{30}{200}$		

Kesir	Ondalık	Yüzde
	0,020	
		%1
	0,070	
$\frac{12}{30}$		
	0,04	
		%5
$\frac{77}{140}$		

ProblemDede

13. Aşağıdaki boşlukları uygun şekilde doldurunuz.

a.

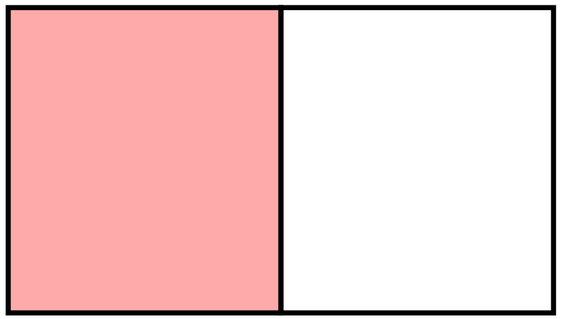

Kesir:

Ondalık:

Yüzde:

b.



Kesir: $\frac{1}{4}$

Ondalık:

Yüzde:

c.

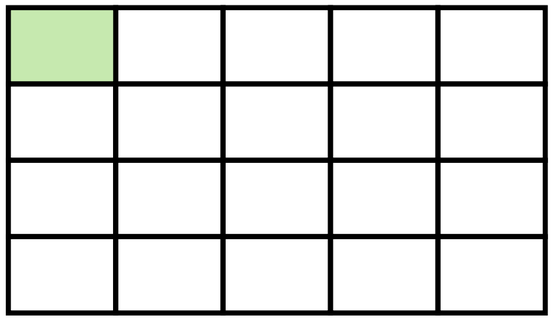

Kesir:

Ondalık:

Yüzde:

ProblemDede

ç.



Kesir: $\frac{1}{25}$

Ondalık:

Yüzde:

d.

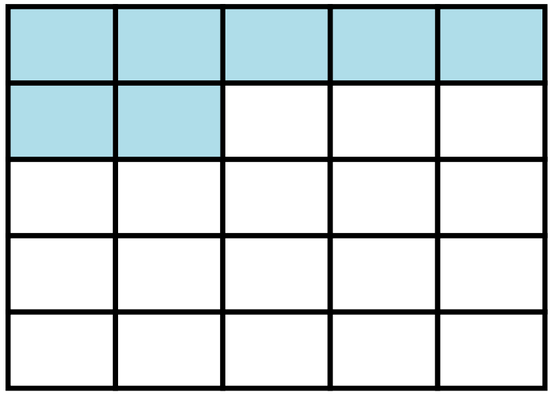

Kesir:

Ondalık:

Yüzde:

e.



Kesir: $\frac{3}{4}$

Ondalık:

Yüzde:

ProblemDede

f.



Kesir:

Ondalık:

Yüzde:

g.



Kesir:

Ondalık: 0,74

Yüzde:

ğ.

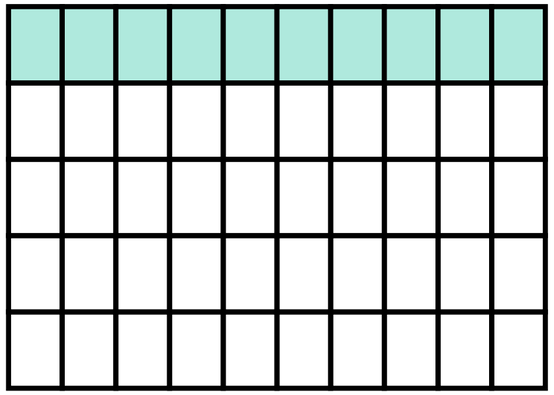

Kesir:

Ondalık:

Yüzde:

ProblemDede

h.

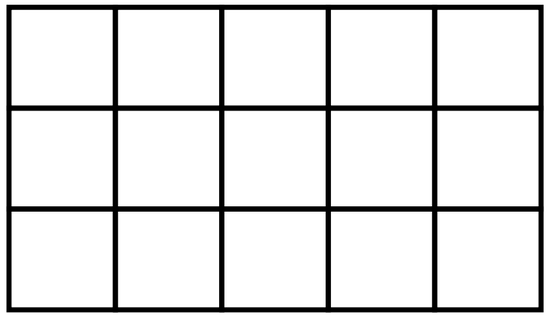

Kesir: $\frac{6}{15}$

Ondalık:

Yüzde:

ı.

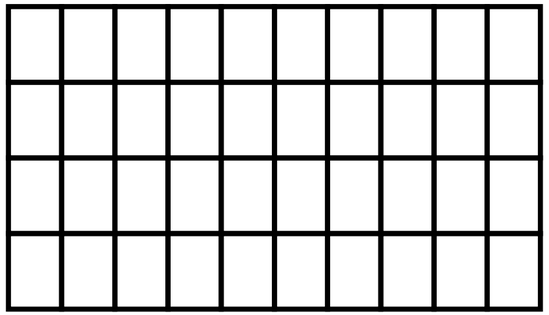

Kesir:

Ondalık: 0,1

Yüzde:

i.



Kesir:

Ondalık:

Yüzde: %40

ProblemDede

j.



Kesir:

Ondalık: 0,9

Yüzde:

k.

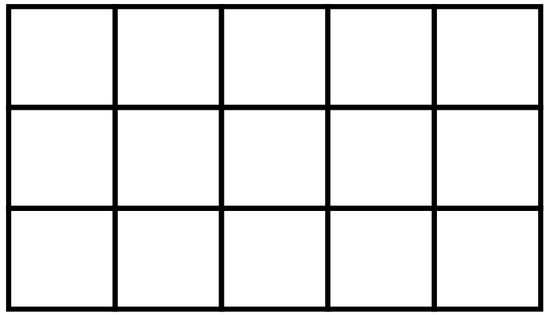

Kesir:

Ondalık:

Yüzde: %20

l.

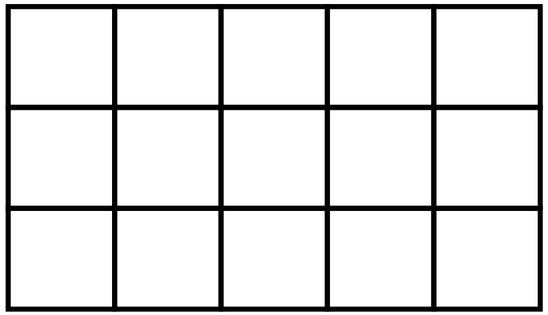

Kesir: $\frac{18}{45}$

Ondalık:

Yüzde:

ProblemDede

14. Kenan Amca, domateslerin kilosunu 50 kuruşa mâl etmiştir. Domateslerin kilosunu pazarda 75 kuruşa satmıştır. Kenan Amca'nın domateslerden elde ettiği kârın, maliyetin ne kadarı olduğunu kesir, ondalık ve yüzde olarak ifade ediniz.

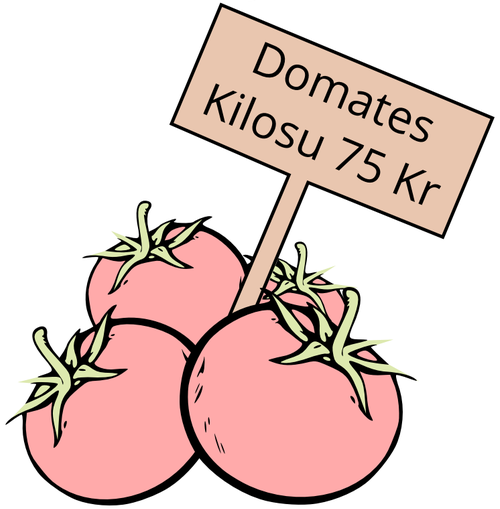

ProblemDede

15. Yavuz koştuğunda nabzı dakikada 120 kez, oturduğunda ise dakikada 80 kez atmaktadır. Yavuz'un koşarkenki nabız artışının otururkenki nabzının ne kadarı olduğunu kesir ondalık ve yüzde olarak ifade ediniz.

ProblemDede

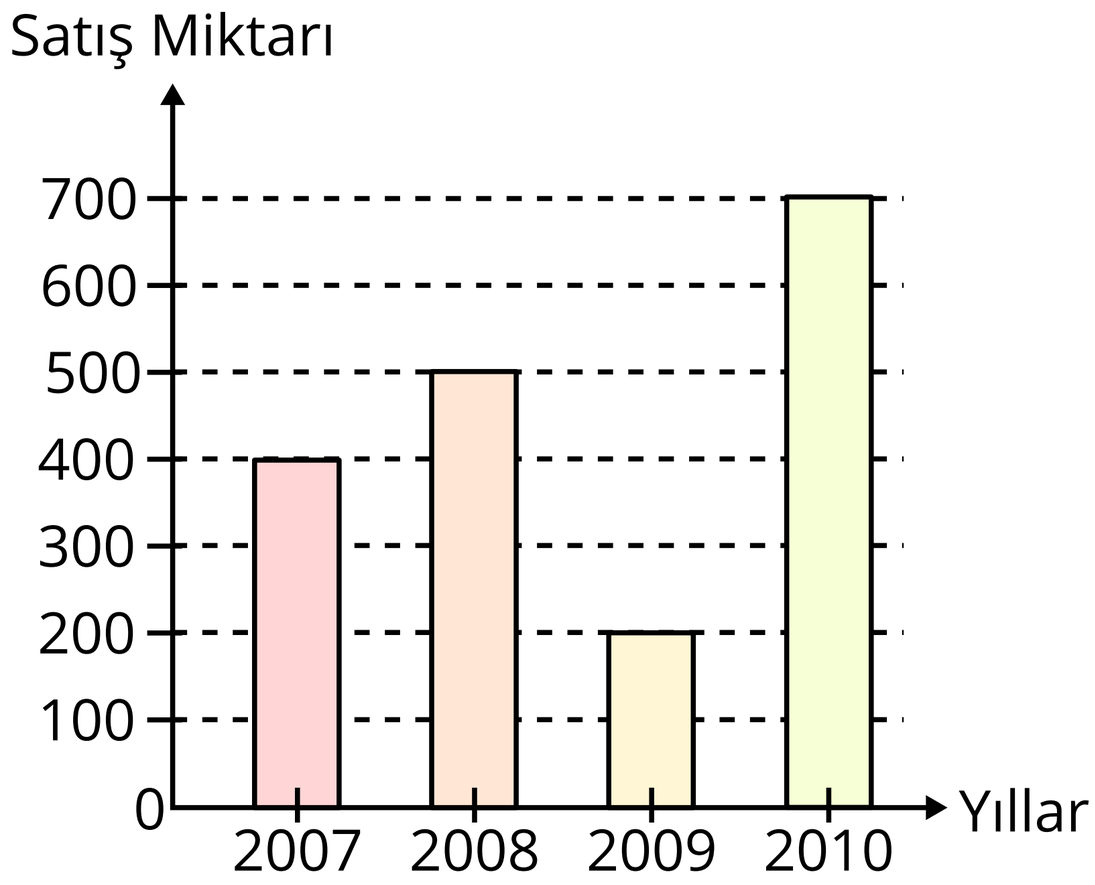

16. Teknolojik ürünler satan bir mağazada, televizyon satışları grafikte verilmiştir. Grafiğe göre aşağıdaki soruları cevaplayınız.

a. 2008 yılındaki satışların 2007 yılına göre artışını kesir, ondalık ve yüzde olarak ifade ediniz.

b. 2009 yılındaki satışların 2007 yılına göre azalışını kesir, ondalık ve yüzde olarak ifade ediniz.

c. 2010 yılındaki satışlarıın 2008 yılına göre artışını kesir, ondalık ve yüzde olarak ifade ediniz.

ProblemDede

17. İmâlat fiyatı 700 TL olan bir televizyon 756 TL'ye satılıyor. Bu televizyondan edilen kârın imâlat fiyatının ne kadarı olduğunu kesir, ondalık ve yüzde olarak ifade ediniz.

ProblemDede

Yıllar	2006	2007	2008	2009	2010
Mezun Oranı	$\frac{1}{4}$	$\frac{16}{50}$	$\frac{11}{25}$	$\frac{11}{20}$	$\frac{68}{100}$

18. Yukarıda verilen tabloda, bir üniversitenin 2006 - 2010 yılları arasında mezun ettiği öğrencilerin tüm öğrencilere oranı verilmiştir.

a. Her bir oranı yüzde olarak ifade ediniz.

b. 2015 yılındaki mezunların yüzdesi için bir tahmin yapınız.

ProblemDede

19. Evinize misafir geleceği için anneniz bakkaldan 100 g kahve almanızı istedi. Kahvenin KDV'li fiyatı 15 TL ve bu fiyatının 3 TL'si KDV olduğuna göre kahvenin KDV'sini kesir, ondalık ve yüzde olarak ifade ediniz.

ProblemDede

20. Halil, bilinçli bir tüketici olarak alışveriş merkezinin uygulayacağı indirim dönemini bekliyor. İndirimsiz fiyatı 750 TL olan bilgisayarı 585 TL'ye alıyor. Bilgisayardaki indirim miktarını kesir, ondalık ve yüzde olarak ifade ediniz.



ProblemDede

21. Zeki Bey, arkadaşının 21 500 TL' ye aldığı arabasını arkadaşından 18 060 TL'ye satın almıştır. Zeki Bey'in arkadaşının kâr-zarar durumunu kesir, ondalık ve yüzde olarak ifade ediniz.



ProblemDede

22. Bir mağaza 28 TL'ye aldığı bir ürünü önce 35 TL'ye, sonra da 21 TL'ye satmıştır. Bu ürüne uygulanan indirim ve zam miktarını kesir, ondalık ve yüzde olarak ifade ediniz.



ProblemDede

23. Bir satıcı 12 kg'lik sandıklardan, sandığı 12 TL'ye 2 sandık domates alarak 20 kg'ını 48 TL'ye satıyor. Domateslerin geri kalanı çürüdüğü için çöpe atılıyor. Satıcının domateste kilogram başına kârını kesir, ondalık ve yüzde olarak ifade ediniz.



ProblemDede



24. Yukarıda bir dijital saatte rakamları göstermek için özdeş bölmelere yerleştirilen ışıklardan hangilerinin yanması gerektiği gösterilmiştir. Örneğin; 3 rakamı için beş bölmedeki, 4 rakamı için dört bölmedeki, 5 rakamı için beş bölmedeki ışığın yanması gerekmektedir.



Yukarıdaki dijital saat 16.08'i gösterdiğinde bu saatteki 28 bölmeye yerleştirilen ışıkların yüzde kaçı yanar?

YN-30

ProblemDede