YÜZDELER

ProblemDede

M.5.1.6.3. Kesir, ondalık ve yüzdelik gösterimlerle belirtilen çoklukları karşılaştırır.

ProblemDede

1. Annesi bir miktar paranın $\frac{3}{10}$'ünü Umut'a, %40'ını Ufuk'a vermiştir. Kim daha fazla harçlık almıştır?



ProblemDede

2. Bir portakal suyunun 0,48'i portakal nektarı, %45'i sudan oluşmaktadır. Bu portakal suyunda nektar mı su mu fazladır?



ProblemDede

3. Bir tepsi baklavanın birinci gün $\frac{2}{5}$'si, ikinci gün %30'u yendi. Hangi gün daha çok baklava yenmiştir?

ProblemDede

4. Aynı kitabın Hakan %65'ini, Hüseyin 0,7'sini okumuştur. Kim daha fazla okumuştur?



ProblemDede

5. Sevda bir pastanın %35'ini, Çiğdem ise $\frac{9}{25}$ 'unu yemiştir. Buna göre kim daha az pasta yemiştir?

ProblemDede

6. Aynı kapasitede üretim yapan iki seramik fabrikasının birincisinde 0,25'i ikincisinde ise %30'u hatalı çıkmıştır. Fabrikaların hata miktarlarını karşılaştırınız.

ProblemDede

7. Basket yarışında Aylin 20 atıştan 14'ünü, Ebru ise 25 atıştan 17'sini isabet ettirdi. Hangi öğrencinin isabet yüzdesi daha fazladır?



ProblemDede

8. İki parktan birincisinde %40'ı, ikincisinde $\frac{3}{10}$'u yeşil alan olarak ayrıldı. Hangi parkta yeşil alan daha fazladır?



ProblemDede

9. $\frac{11}{25}$, %45 ve 0,46 ifadelerinden hangisi en küçüktür?

ProblemDede

10. Boncukların $\frac{1}{4}$'i sarı, %41'i kırmızı, 0,34'ü de mavi renktedir. Boncukları karşılaştırınız.

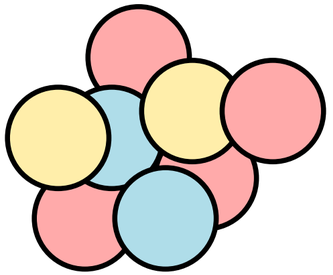

ProblemDede

11. Bir bahçenin %52'sine domates, $\frac{16}{50}$'sine biber, 0,16'sına da fasulye ekildi. Ürünleri büyükten küçüğe sıralayın.



ProblemDede

12. Hangi sıklıkla dişlerinizi fırçalarsınız sorusuna aşağıdaki cevaplar verilmiştir. Cevapları çok olan gruptan az olan gruba doğru sıralayınız.

Hiç fırçalamam	%8
Haftada 1 kez fırçalarım	%20
Günde 2 kez fırçalarım	$\frac{6}{25}$
Günde 3 kez fırçalarım	$\frac{2}{5}$
Günde 4-5 kez fırçalarım	0,08

ProblemDede

13. Aşağıda verilen boşlukları >, <, = sembollerinden uygun olanı yazınız.

a. %25 0,2

b. %40 ..... %36

c. 0,05 ..... %3

ç. %11 0,1

d. $\frac{1}{2}$ ..... %50

e. %10 ..... $\frac{2}{20}$

f. $\frac{21}{25}$ ..... %85

g. %44 0,4

ğ. 0,37 ..... %3

h. %65 ..... $\frac{7}{10}$

ı. $\frac{3}{4}$ 0,71

i. 0,2 ..... %19

ProblemDede

j. $\frac{4}{5}$ ..... %80

k. %36 0,4

l. $\frac{3}{5}$ ..... %40

m. %8 0,1

n. %25 0,24

o. $\frac{1}{5}$ ..... %21

ö. %64 0,6

p. 0,9 ..... %9

r. 0,670 ..... %67

s. %15 ..... $\frac{6}{40}$

ş. 0,03 ..... %4

t. $\frac{6}{100}$ ..... %6

u. %80 0,8

ü. 0,720 ..... %75

v. %48 ..... $\frac{240}{500}$

y. 0,320 ..... %33

ProblemDede

14. Aşağıda verilen ifadeleri büyükten küçüğe sıralayınız.

a. 0,61 ; %44 ; $\frac{6}{20}$

b. 0,51 ; %58 ; $\frac{9}{25}$

c. 0,76 ; %49 ; $\frac{76}{200}$

ç. 0,6 ; %35 ; $\frac{7}{10}$

d. 0,18 ; %27 ; $\frac{3}{4}$

e. 0,54 ; %49 ; $\frac{12}{25}$

f. 0,23 ; %24 ; $\frac{11}{50}$

g. 0,41 ; %34 ; $\frac{1}{5}$

ğ. 0,35 ; %33 ; $\frac{2}{5}$

ProblemDede

15. Aysel, tatile çıkarken valizine daha az kırıştıkları için aşağıdaki elbiselerden polyester oranı en yüksek olanı koymak istiyor. Bunun için elbiselerin pamuk ve polyester karışım oranlarını inceliyor.

A) % 88 Pamuk
%12 Polyester

B) 0,853 Pamuk
0,147 Polyester

C) 0,7 Pamuk
0,3 Polyester

Ç) % 75 Pamuk
% 25 Polyester

Buna göre Aysel'in yukarıdaki elbiselerden hangisini valizine koyması beklenir?

ProblemDede

16. Sıcak hava balonu ısıtılmış hava yardımı ile atmosferde uçabilen genellikle sepetli hava taşıtıdır. Balonun altında yakılan ateş balonun içindeki havayı ısıttığından hava genleşir ve balon yükselir. Sıcak hava balonunun içindeki hava ne kadar çok genleşirse balon o kadar yükselir. Ateş söndürüldüğünde ise balonun içindeki hava soğumaya başladığından genleşme durur ve balon aşağıya doğru inmeye başlar. Farklı yüksekliklerde uçmakta olan eşit miktarda hava ile şişirilmiş üç balondaki havanın genleşme miktarı ile ilgili aşağıdaki bilgiler veriliyor.

1. Balon : İçindeki havanın $\frac{1}{4}$'ü kadar genleşmiştir.



2.Balon : İçindeki havanın 0,3'ü kadar genleşmiştir.



3.Balon : İçindeki havanın % 20'si kadar genleşmiştir.



Verilen bilgilere göre bu balonların bulundukları yüksekliklerin büyükten küçüğe doğru sıralayınız.

YN-18

ProblemDede