ONDALIK GÖSTERİM

ProblemDede

M.6.1.6.7. Sayıların ondalık gösterimleriyle yapılan işlemlerin sonucunu tahmin eder.

0,1; 0,25; 0,5 gibi ondalık gösterimlerin kullanılabileceği günlük hayata ilişkin tahminlerle sınırlı kalınır.

ProblemDede

1. Fadime teyze yıllık baharat ihtiyacını karşılamak üzere baharatçıdan 1,2 kg kırmızı biber, 0,8 kg karabiber, 0,43 kg kekik, 0,15 kg nane ve 0,5 kg kimyon aldı. Ne kadar baharat aldığını tahmin ediniz.

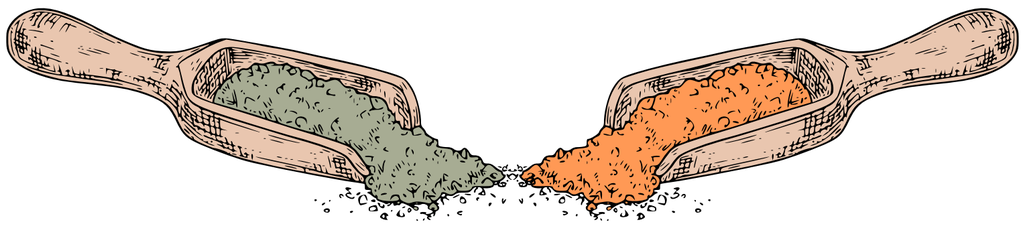

ProblemDede

2. Benzinin litre fiyatı 3,65 TL'dir. Arabanıza 50 TL'lik benzin aldığınızda yaklaşık kaç litre benzin almış olursunuz?



ProblemDede

3. Aşağıda verilen ondalık kesirlerden;

a. Hangi ikisini topladığımızda sonuç tahminen 10 olur?

b. Hangi ikisinin farkını aldığımızda sonuç tahminen 6 olur?

13,219 6,8 8,86 3,158 5,4

ProblemDede

4. Yanda verilen KRŞ eşkenar üçgeninin çevresini tahmin ediniz. Tahmininizi işlem sonucu ile karşılaştırınız.

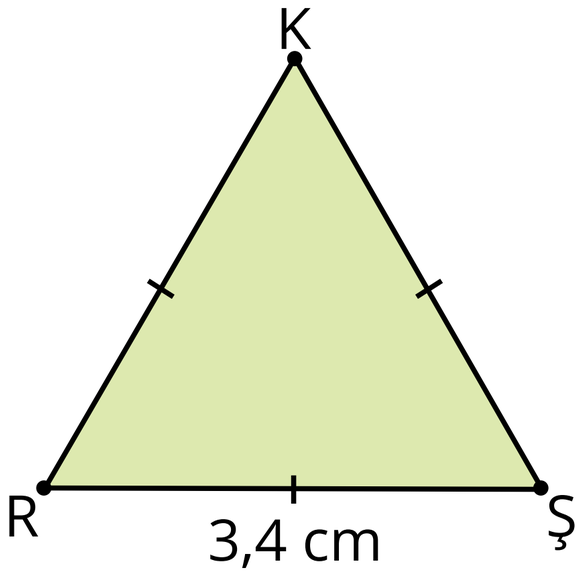

ProblemDede

5. 135,64 + 65,65 + 100,101 + 15,9 işlemin sonucunu sayıları tam sayıya yuvarlayarak tahmin ediniz.

ProblemDede

6. 8 TL ile 4,29 TL'lik kuru üzüm, 2,47 TL'lik leblebi ve 1,98 TL'lik çekirdek alabilir misiniz? Yuvarlama işlemi yaparak sonucu tahmin ediniz.

ProblemDede

7. Aşağıdaki toplamlardan hangisinin sonucu 19 ile 22 arasındadır?

a. 4,22 + 10,85 + 8,97

b. 2,98 + 13,75 + 4,50

c. 6,05 + 7,86 + 9,22

ç. 5,32 + 9,63 + 0,45

ProblemDede

8. Aşağıdaki işlemlerin sonuçlarını uygun stratejileri seçerek tahmin edelim.

a. 42,35 + 18,73 + 40,50 + 22,64

b. 22,7 + 17,54 + 8,3 + 102,4 + 41,62

c. 10,24 + 3,75 + 19,56 + 32,45

ç. 312,001 + 28,984 + 1,349

ProblemDede

9. Motorsikletli bir kurye aşağıda şemada gösterilen yolu takip ederek dört farklı adrese teslimat yapacaktır. Kuryenin motorsikletinin deposunda 3,2 L benzin vardır ve motorsiklet 1 L benzinle 15 km yol alabilmektedir. Buna göre kurye, motorsikletinin deposundaki benzinle 4. adrese kadar olan yolun tamamını gidebilir mi? Tahmin edelim.

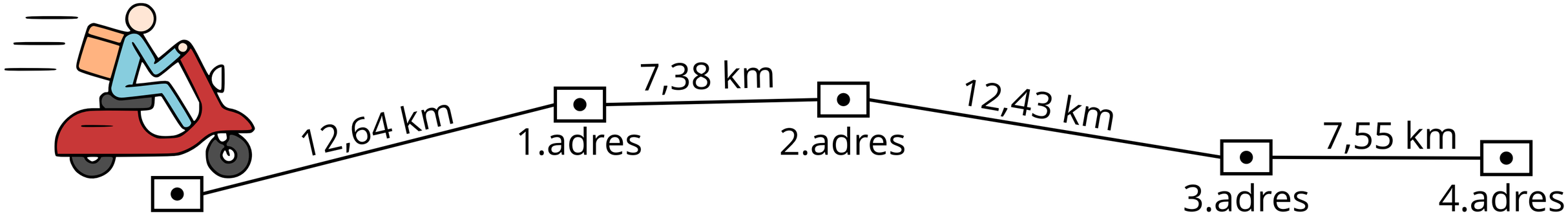

ProblemDede

10. Kestane yapıp satan bir satıcı yanda verilen büyüklükteki kese kâğıtlarında kestane satmaktadır. Buna göre aşağıda verilen soruları cevaplayınız.

8,45 TL - Küçük boy
10,95 TL - Orta boy
12,35 TL - Büyük boy
15,95 TL - En büyük boy

a. Küçük boy ile büyük boy paketlerde satılan kestanenin toplam fiyatını tahmin ediniz. İşlemi yaparak tahmininizle karşılaştırınız.

b. 2 tane orta boy kestanenin yuvarlama yaparak toplamını tahmin ediniz.

c. En büyük boy paket kestanenin fiyatı küçük boy kestanenin fiyatından ne kadar fazla olduğunu yuvarlama yaparak tahmin ediniz.

ProblemDede

11. Aldığım 12 yumurtayı tarttığımda 577,2 g olduğunu gördüm. Benim aldığım yumurtalar ortalama olarak kaç gramdır? Tahmin ediniz. Eğer aldığım yumurtalardan bir tanesinin ortalama ağırlığı 50,5 g olsaydı 12 yumurta kaç gram olurdu? Tahmin ediniz.



12. Nimet Hanım, ev ihtiyaçlarını almak için markete gider. Kilogramı 1,65 TL'den 3 kg bulgur, fiyatı 10,25 TL olan 5 kg pirinç ve 1 koli yumurta alır. Bunlar için 20 TL vererek 0,30 TL para üstü alır. Buna göre aşağıdaki soruların sonuçlarını tahmin ediniz.

a. Nimet Hanım'ın yaptığı alışveriş tutarı kaç liradır?

b. 1 kilogram pilavlık pirincin fiyatı 1 kilogram bulgurun fiyatından kaç lira fazladır?

c. 1 koli yumurta kaç liradır?



ProblemDede