ONDALIK GÖSTERİM

ProblemDede

M.6.1.6.8. Ondalık ifadelerle dört işlem yapmayı gerektiren problemleri çözer.

ProblemDede

1. Bir çay üreticisi 3600 kg yaş çay toplamıştır. 4,5 kg yaş çaydan 1 kg kuru çay elde edilmektedir. Üretici 1 kg kuru çayı 10,5 TL'ye satmaktadır. Buna göre,

a. Üretici topladığı yaş çaydan kaç kg kuru çay elde eder?

b. Üretici toplam kaç TL kazanır?

ProblemDede

2. Nur bebek bir günde 0,45 litre süt içmektedir. Sütün litresi 2,8 TL ise iki ayda Nur bebeğin içtiği süt için ailesi kaç TL öder?

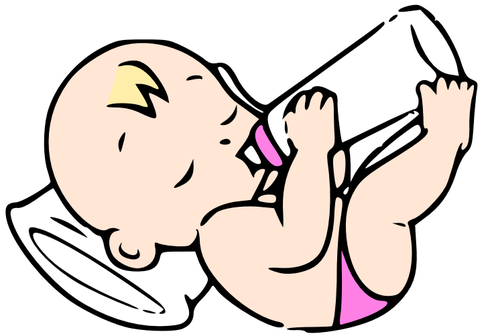

ProblemDede

3. Bir tatlı ustası kilogramı 8,5 TL masrafla bir günde 125 kg tatlı üretiyor. Ürettiği tatlıların kilogramını 12,2 TL'ye satıyor;

a. Tatlı ustası bir günde ürettiği tatlı için kaç TL masraf eder?

b. Bir günlük tatlı satışından kaç TL kazanır?

ProblemDede

Gıda	Simit	Tost	Ayran	Börek	Su
Adet	4	2	5	2	5
Birim Fiyatı	0,75	1,25	0,80	1,5	0,3



4. Ahmet, Hasan, İbrahim, Kayra ve Tarık'ın toplam harçlıkları 20 TL'dir. Beş arkadaş öğle arası okul kantininden tablodaki ürünleri satın alıyorlar.

a. Alışverişte toplam kaç TL ödeme yapılmalıdır?

b. Para üzerini eşit paylaştıklarına göre her biri kaçar TL alır?

ProblemDede

Elma Fidanı 14,6 TL
Erik Fidanı 12,5 TL
Ceviz Fidanı 16, 5 TL
Armut Fidanı 18,8 TL



5. Bahçıvan Recep amca fidancıdan 6 elma, 3 ceviz, 5 erik, 5 armut fidanı almak istiyor,

a. Sadece elma ve armut fidanlarını alırsa kaç TL öder?

b. Sadece erik ve ceviz fidanlarını alırsa kaç TL öder?

c. Bahçıvan Recep amcanın 376,5 TL parası olduğuna göre fidanların tamamını alırsa elinde kaç TL'si kalır?

ProblemDede

6. Yakıt istasyonu 1 saat içerisinde 26,4 litre benzin 35,2 litre motorin ve 84,8 litre LPG satıyor;

Yakıt	Benzin	Motorin	LPG
Litre Fiyatı	4,95 TL	4,95 TL	2,85 TL



a. Bir saatte satılan benzinden elde edilen para ne kadardır?

b. Bir saatte motorin ve LPG satışından elde edilen para ne kadardır?

c. Bir saatte toplam kaç liralık satış yapmıştır?

ProblemDede

7. Merve Hanım pazar alışverişinde kilogramı 2,4 TL olan biberden 1,25 kg, kilogramı 1,25 TL olan karpuzdan 6,5 kg, kilogramı 1,5 TL olan domatesten 4 kg ve kilogramı 1,2 TL olan salatalıktan 2 kg almıştır;



a. Biber ve karpuza kaç TL ödemiştir?

b. Domates ve salatalığa kaç TL ödemiştir?

c. Merve Hanım pazara 50 TL ile gittiğine göre geriye kaç TL'si kalır?

ProblemDede

8. Kaymak makinesi ile 12 litre sütten 1 kg kaymak elde edilmektedir. Elde edilen 1 kg kaymaktan ise 0,75 kg tereyağı yapıldığına göre;



a. 240 litre sütten kaç kg tereyağı elde edilir?

b. Bir kg tereyağı 23,5 TL ye satıldığına göre, tereyağından kaç TL kazanılır?

c. 60 kg tereyağı yapmak için kaç kg süt gerekir?

ProblemDede

9. Ali Bey evinin dış cephesine yalıtım yaptıracaktır. Evinin dış cephesi 110 m^2 dir. Ali Bey bu iş için bir m^2 ye 16,5 TL malzeme ve 14,4 TL işçilik ücreti ödeyecektir. Buna göre;

a. Ali Bey malzemeye kaç TL öder?

b. Ali Bey işçilik için kaç TL öder?

c. Ali Bey bu iş için 3500 TL ayırmıştır. Ayrılan para yeterli midir?

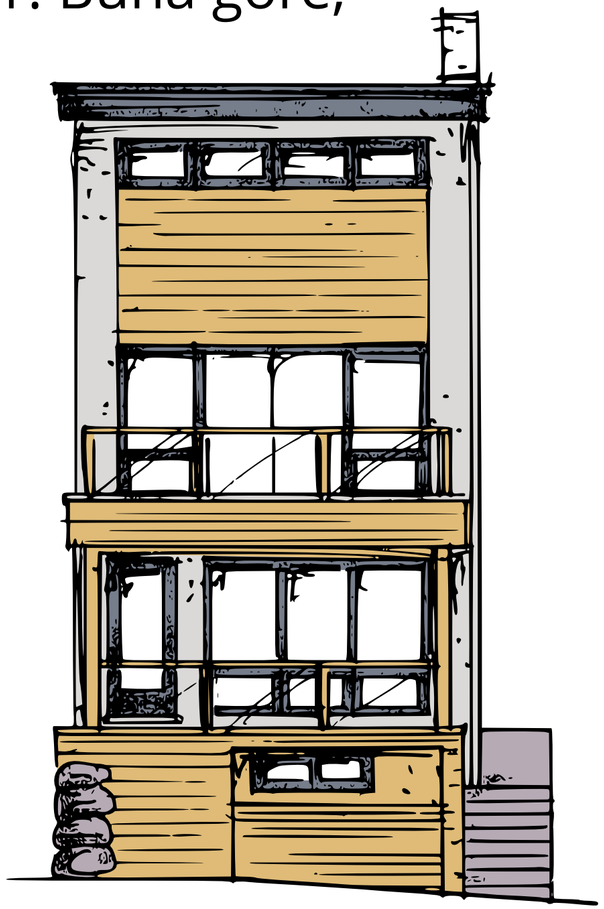

ProblemDede

10. Berber Hasan bir günde 12 saç, 6 sakal, 5 saç – sakal tıraşı yapmaktadır. Hasan günlük kazancının 0,25'ini dükkan masrafları için ayırdığına göre;

Saç 7,5 TL
Sakal 6,5 TL
Saç-sakal 12,5 TL

a. Hasan bir günde toplam kaç TL elde etmiştir?

b. Hasan kazancının ne kadarını dükkan masraflarına ayırmıştır?

c. Hasan günün sonunda kaç TL kazanmıştır?

ProblemDede

11. Bir aile bir ayda $17m^3$ su, 250 m^3 doğalgaz, 175 kilowatt saat elektrik tüketmektedir. Suyun metre küpü 28,1 TL, doğalgazın metre küpü 11 TL ve elektriğin kilowatt saati 2,9 TL olduğuna göre;

a. Bu ailenin bir ayda suya, doğalgaza ve elektriğe ödediği toplam miktar kaç TL'dir?

b. Ailenin aylık geliri 23200 TL olduğuna göre yukarıdaki faturaları ödedikten sonra geriye kaç TL kalır?

ProblemDede