ORAN

ProblemDede

M.6.1.7.1. Çoklukları karşılaştırmada oran kullanır ve oranı farklı biçimlerde gösterir.

5:6, $\frac{5}{6}$*, 5'in 6'ya oranı gibi farklı gösterimler kullanılır.*

ProblemDede

Faaliyetler	Uyku	Okul	Ödev	Oyun	Yemek	Gezi	Diğer
Zaman (Saat)	8	6	3	2	2	1	2

1. Yukarıdaki tabloda Ali'nin bir günlük programı verilmiştir. Buna göre;

a. Yemekte geçen zamanın uykuda geçen zamana oranı nedir?

b. Okulda geçen zamanın oyunda geçen zamana oranı nedir?

c. Diğer aktivitelerde geçen zamanın yemekte geçen zamana oranı nedir?

ç. Ödev yaparken geçen zamanın bir güne oranı nedir?

d. Oyun ve geziyle geçen zamanın okul ve uykuyla geçen zamana oranı nedir?

ProblemDede

BİLGİ

- İki çokluğun birbirine bölünerek karşılaştırılmasına oran denir. a ve b iki doğal sayı ve b ≠ 0 olmak üzere a'nın b'ye oranı a : b, $\frac{a}{b}$ veya a / b şeklinde gösterilir. "a'nın b'ye oranı" şeklinde okunur.
- Bir oranı belirten kesir sadeleştirilir ya da genişletilirse oranın değeri değişmez.

ProblemDede

2. Yukarıda yavru hayvanlar ve anneleri verilmiştir. Yavru hayvanların annelerine oranlarını bulunuz.



ProblemDede

3. Bir simitçinin tezgâhında gün sonunda 5 simit, 7 poğaça ve 8 ay çöreği kalmıştır. Buna göre;

a. Simitlerin sayısının ay çörekleri sayısına oranını farklı şekillerde yazalım.

b. Poğaça sayısının simit sayısına oranı farklı şekillerde yazalım.

c. Simit sayısının poğaça sayısına oranını farklı şekillerde yazalım.



ProblemDede

4. Cihan girdiği sınavı 52,5 dakikada, Sıla ise 32,5 dakikada bitirmiştir. Cihan'ın sınavı bitirme süresinin Sıla'nın sınavı bitirme süresine oranını bulalım.

ProblemDede

5. Cem'in okulundaki bilgisayar laboratuvarında 60 öğrenciye 24 bilgisayar düşmektedir. Duru'nun okulunda ise 50 öğrenciye 22 bilgisayar düşmektedir.



a. Cem'in okulundaki bilgisayar sayısının öğrenci sayısına oranını bulalım.

b. Duru'nun okulundaki bilgisayar sayısının öğrenci sayısına oranını bulalım.

c. Her bir okul için bilgisayar başına düşen öğrenci sayısını bulalım.

ProblemDede

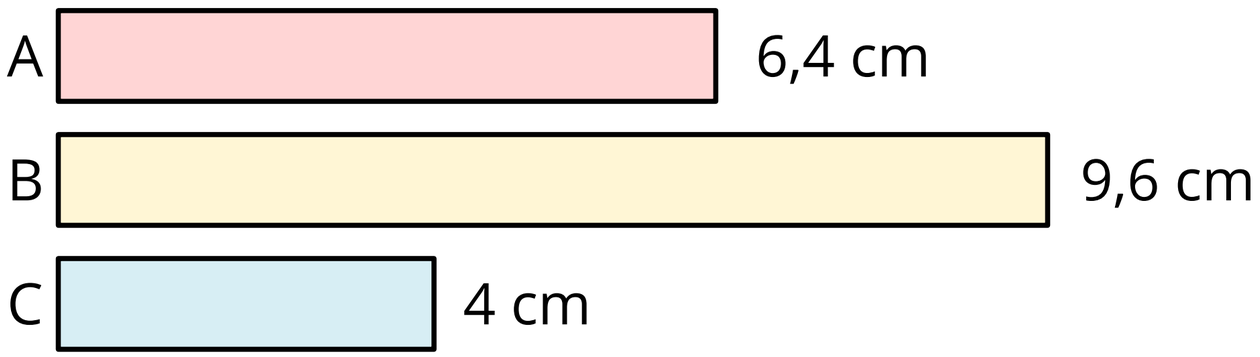

6. A, B ve C şeritlerinin uzunlukları yanlarında verilmiştir. Buna göre aşağıdaki oranları bulunuz.

a. A'nın C'ye oranı

b. B'nin A'ya oranı

c. C'nin A'ya oranı

ç. A'nın (B+C)'ye oranı

d. C'nin (A+B+C)'ye oranı

ProblemDede

7. Aşağıda KLMO dikdörtgeni ve OMN dik üçgeni verilmiştir. IKLI = 3 cm, ILMI = 6 cm ve IMNI = 2 cm dir. Verilenlere göre OMN üçgeninin alanının, KLMO dikdörtgeninin alanına oranını bulunuz.

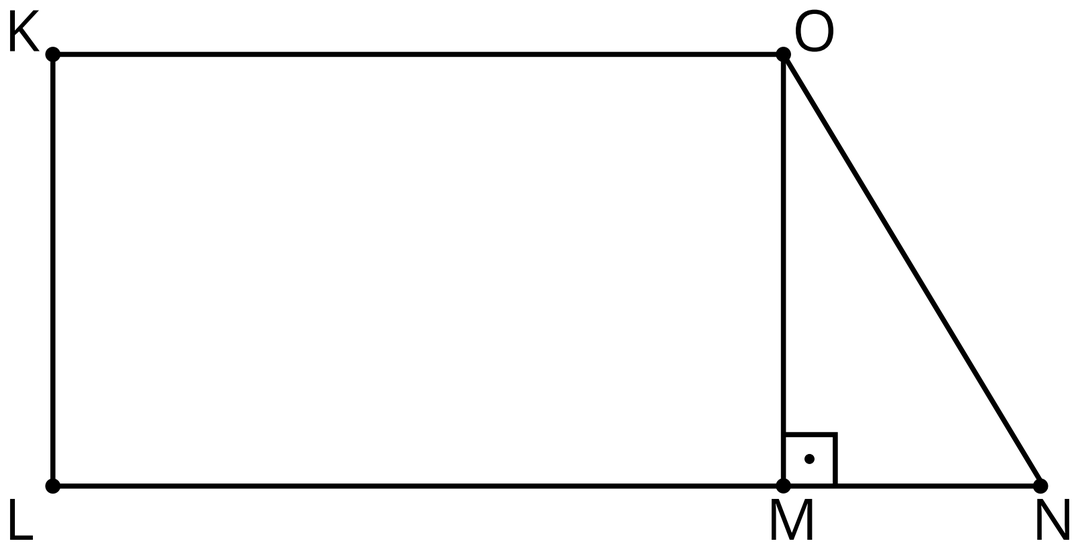

ProblemDede

P.tesi	Salı	Çarş.	Perş.	Cuma

8. Yanda verilen haftalık ders programı tablosunu doldurunuz. Daha sonra aşağıda verilen soruları cevaplayınız.

a. Türkçe ders saati sayısının Matematik ders saati sayısına oranı nedir?

b. İngilizce ders saati sayısının Fen Bilimleri ders saati sayısına oranı nedir?

c. Müzik ders saati sayısının Beden Eğitimi ders saati sayısına oranı nedir?

ç. Seçmeli ders saatleri sayısının haftalık ders saati sayısına oranı nedir?

d. Seçmeli olmayan ders saatleri sayısının seçmeli ders saatleri sayısına oranı nedir?

ProblemDede