ORAN

ProblemDede

M.6.1.7.2. Bir bütünün iki parçaya ayrıldığı durumlarda iki parçanın birbirine veya her bir parçanın bütüne oranını belirler, problem durumlarında oranlardan biri verildiğinde diğerini bulur.

Örnek durumlar: Bir sınıfta kızların sayısının erkeklerin sayısına oranı 2/3 ise kızların sayısının sınıf mevcuduna oranı nedir?

Bir sınıfta kızların sayısının sınıf mevcuduna oranı 2/5 ise erkeklerin sayısının kızların sayısına oranı nedir?

ProblemDede

1. Şeyma, 300 sayfalık kitabının 60 sayfasını pazar günü, geri kalanını da hafta içi okumuştur. Buna göre;

a. Şeyma'nın pazar günü okuduğu sayfa sayısının kitabın tamamına oranı nedir?

b. Şeyma'nın hafta içi okuduğu sayfa sayısının kitabın tamamına oranı nedir?

c. Şeyma'nın hafta içi okuduğu sayfa sayısının pazar günü okuduğu sayfa sayısına oranı nedir?

ProblemDede

2. 1,5 litre boya ile 3 litre su karıştırılıyor. Elde edilen karışımda;

a. Boya miktarının su miktarına oranı nedir?

b. Boya miktarının karışım miktarına oranı nedir?

c. Su miktarının karışım miktarına oranı nedir?

ProblemDede

3. Aşağıdaki tabloda bir okulun altıncı sınıf şubelerinde öğrenim gören kız ve erkek öğrenci sayıları verilmiştir. Tabloya göre aşağıdaki soruları cevaplayalım.

Şube	Kız	Erkek
6-A	10	15
6-B	12	10
6-C	8	12

a. 6-A sınıfındaki kız öğrenci sayısının erkek öğrenci sayısına oranını bulalım.

b. 6-B sınıfındaki erkek öğrenci sayısının toplam erkek öğrenci sayısına oranını bulalım.

c. 6-C sınıfındaki kız öğrenci sayısının toplam öğrenci sayısına oranını bulalım.

ç. 6. sınıfta öğrenim gören kız öğrenci sayısının erkek öğrenci sayısına oranını bulalım.

ProblemDede

4. İstanbul - Ankara seferini yapan bir yolcu otobüsünde 25 kadın ve 20 erkek bulunmaktadır. Buna göre aşağıdaki soruları cevaplayınız.



a. Kadın yolcu sayısının erkek yolcu sayısına oranı nedir?

b. Otobüsteki kadın yolcu sayısının toplam yolcu sayısına oranı nedir?

c. Otobüsteki erkek yolcu sayısının toplam yolcu sayısına oranı nedir?

ProblemDede

5. Hafta sonu yüzmeye giden öğrenciler 3 gruba ayrılmıştır. 3-7 yaş grubunda 10 öğrenci 8-12 yaş grubunda 8 öğrenci ve 13-17 yaş grubunda 6 öğrenci vardır. Buna göre aşağıdaki soruları cevaplayınız.

a. 3-7 yaş grubu öğrenci sayısının 13-17 yaş grubu öğrenci sayısına oranı nedir?

b. 13 yaşından küçük öğrenci sayısının 13-17 yaş grubu öğrenci sayısına oranı nedir?

c. 12 yaşından büyük öğrenci sayısının tüm öğrenci sayısına oranı nedir?



ProblemDede

6. Aşağıda bir kek yapımı için kullanılan malzemeler verilmiştir.

Yumurta	Şeker	Süt	Sıvı Yağ	Tarçın	Un
3 Tane	330 gr	165 ml	82,5 ml	41,25 gr	825 gr

a. Unun yumurtaya oranı nedir?

b. Tarçının şekere oranı nedir?

c. Unun süte oranı nedir?

ç. Sütün sıvı yağa oranı nedir?

d. Tarçının una oranı nedir?

e. Gr birimi olan ürünlerin toplamının ml birimi olan ürünlerin toplamına oranı nedir?

ProblemDede

7. Aşağıdaki tabloda üç farklı meyve bahçesinde yer alan kiraz ve elma ağaçlarının sayısı ve bu ağaçlara ait bazı oranlar verilmiştir. Tablodaki boşlukları doldurunuz.

Meyveler	**Kiraz**	**Elma**	**Toplam Ağaç Sayısı**	**Kiraz Ağacı / Elma Ağacı**	**Elma Ağacı / Toplam Ağaç**
1.Bahçe	40	60			
2.Bahçe			60	41 : 19	
3.Bahçe		35			35 : 61

ProblemDede

8. Bir meyveli içecekte meyve oranı %40'tır. Buna göre aşağıdaki soruları cevaplayınız.

a. Bu meyveli içecekte kullanılan su miktarının meyveli içecek miktarına oranı nedir?

b. Bu meyveli içecekte kullanılan su miktarının meyve miktarına oranı nedir?

c. Aynı oranda hazırlanan 200 mL'lik bir meyveli içecekte kullanılan su miktarı ile meyve miktarı ne olur?



ProblemDede

9. Bir şirkette çalışanların $\frac{2}{3}$'si İngilizce bilmektedir. Buna göre;

a. İngilizce bilenlerin sayısının, bilmeyenlerin sayısına oranı nedir?

b. Bu şirkette 60 kişi çalışıyorsa İngilizce bilenlerin sayısını bulunuz.

ProblemDede

10. Aşağıdaki kare şeklindeki bölgenin yarısını sarıya, $\frac{1}{3}$'ini maviye ve geriye kalanı da kırmızıya boyayınız. Buna göre aşağıdaki soruları cevaplayınız.



a. Sarıya boyalı alanın maviye boyalı alana oranı nedir?

b. Şeklin kaçta kaçı kırmızıya boyanmıştır?

ProblemDede

11. Bir aşçının aşureye koyduğu nohut miktarının fasulye miktarına oranı $\frac{3}{4}$, fasulye miktarının buğday miktarına oranı $\frac{2}{5}$'dir. Buna göre nohut miktarının buğday miktarına oranını bulalım.

ProblemDede

12. Betül'ün yaşının Defne'nin yaşına oranı $\frac{1}{4}$ ve Defne'nin yaşının Esra'nın yaşına oranı $\frac{3}{4}$ ise Betül'ün yaşının Esra'nın yaşına oranı kaçtır?

ProblemDede