ORAN

ProblemDede

M.7.1.4.1. Oranda çokluklardan birinin 1 olması durumunda diğerinin alacağı değeri belirler.

Örneğin 24 TL'ye 3 kg deterjan alınabiliyorsa 1 kg deterjanın 8 TL'ye alınması. P ilav tarifinde 2 bardak pirince 3 bardak su konuluyorsa 1 bardak pirince düşen su miktarının 3/2 bardak olması gibi durumlar incelenir.

ProblemDede

1. Her grupta bulunan kutular kamyonlara eşit sayıda olacak şekilde yüklenecektir. Kamyon başına kaç kutu düştüğünü bulunuz.







ProblemDede

2. 15 litre boya ile 45 metrekare alan boyanabildiğine göre 1 litre boya ile kaç metrekare alan boyanabilir?

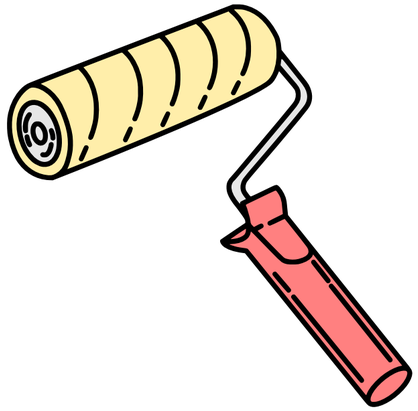

ProblemDede

3. 3 litre ayçiçek yağı 36 TL ise 1 litre ay çiçek yağı kaç TL dir?

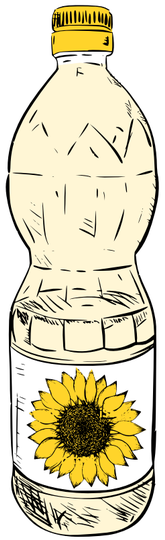

ProblemDede

4. 5 kg sütten 800 gram peynir elde ediliyorsa 1 kg sütten kaç gram peynir elde edilir?



ProblemDede

5. 2 bardak pirince 3 bardak su ekleyerek pilav pişiriyor. 1 bardak pirince kaç bardak su eklenmelidir?



ProblemDede

6. 5 kg portakaldan 3 litre portakal suyu elde ediliyor. 1 litre portakal suyu yapmak için kaç kg portakal gerekir?



ProblemDede

7. 2,5 kg patates 15 TL ise 1 kg patates kaç TL dir?



ProblemDede

8. 0,2 saatte 1,2 km koşan bir atlet 1 saatte kaç km koşar?



ProblemDede

9. Bir mimarın yaptığı makette 1,3 cm'lik uzunluk gerçekte 7,8 m olduğuna göre maketteki 1 cm lik uzunluk gerçekte kaç cm dir?

ProblemDede

10. Aşağıda fiyatları verilen 3 deterjandan en ekonomik olan hangisidir?

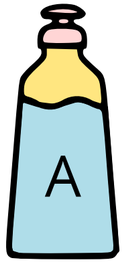

A Marka
3 kg paket 10 TL



B Marka
5 kg paket 17 TL



C Marka
2 kg paket 7 TL

ProblemDede

11. Aşağıda bir çikolatanın 3 farklı şekilde paketlenişi ve fiyatları verilmiştir. En ekonomik olan paket hangisidir?



48'li paket
24 TL



60'lı paket
27 TL



50'li paket
21 TL

ProblemDede

12. Aşağıdaki tabloda 4 ürünün iki farklı manavdaki fiyatları verilmiştir. Ürünlerin hangi manavda daha ekonomik olduğunu bulunuz.

	A Manavı	**B Manavı**
Elma	3 kg'ı 7,5 TL	5 kg'ı 12 TL
Mandalina	4 kg'ı 11 TL	6 kg'ı 15,6 TL
Domates	5 kg'ı 26,25 TL	3 kg'ı 15,9 TL
Muz	8 kg'ı 52 TL	2 kg'ı 12,8 TL

ProblemDede

13. Aşağıda 3 farklı ağırlıkta paketlenmiş un ve fiyatları verilmiştir. En ekonomik olanı bulunuz.



0,5 kg
23,5 TL



1,4 kg
70,7 TL



0,6 kg
24,6 TL

ProblemDede

14. Aşağıdaki noktalı yerlere gelecek uygun ifadeleri yazınız.

a. 4 kg mandalina 16 TL ise 1 kg mandalina ..... TL'dir.

b. 7 l süt 42 TL ise 1 l süt ..... TL'dir.

c. 12 kg vişneden 8 l vişne suyu çıkıyorsa 1 kg vişneden ..... vişne suyu çıkar.

ç. 40 ton pancardan 16 ton şeker üretiliyorsa 1 ton pancardan ..... ton şeker üretilir.

d. 1,2 kg zeytinden 0,3 l zeytinyağı üretilirse 1 kg zeytinden ..... l zeytinyağı üretilir.

e. 5 kg üzüm kurutulduğunda 3,75 kg geliyorsa 1 kg üzüm kurutulduğunda ..... kg gelir.

ProblemDede