ORAN

ProblemDede

M.7.1.4.2. Birbirine oranı verilen iki çokluktan biri verildiğinde diğerini bulur.

Günlük hayat durumlarına ilişkin örnekler üzerinde çalışmalar yapılır.

ProblemDede

1. Bir kümesteki tavukların sayısının ördeklerin sayısına oranı $\frac{4}{5}$'tir. Kümeste 16 tavuk vardır. Buna göre kümesteki ördeklerin sayısı kaçtır?



ProblemDede

2. Bir hamurdaki tuzun una oranı $\frac{3}{250}$'dir. Buna göre 1000 g un kullanılarak hazırlanan bir hamurda ne kadar tuz kullanılır?



ProblemDede

3. Murat 33 yaşındadır. Murat'ın yaşının, babası Kenan'ın yaşına oranı $\frac{0,11}{0,2}$'dir. Buna göre Kenan'ın yaşının kaç olduğunu bulalım.



ProblemDede

4. Bir bahçedeki elma ağaçlarının armut ağaçlarına oranı $\frac{5}{7}$'dir. Bahçede 60 ağaç olduğuna göre kaçı elma, kaç armuttur?



ProblemDede

5. 200 ml'lik bir bardak limonatada limon suyu miktarının su miktarına oranı $\frac{1}{3}$'dir. Buna göre bu limonatada kaç ml limon suyu kaç ml su vardır?

ProblemDede

6. Bir dikdörtgenin çevresi 720 cm'dir. Bu dikdörtgenin kısa kenarının uzun kenarına oranı $\frac{0,5}{0,7}$ olduğuna göre bu dikdörtgenin kısa ve uzun kenar uzunluğunu bulunuz.

ProblemDede

7. Aşağıdaki tabloda bir turist kafilesindeki turistlerin ülkeleri gösterilmek istemektedir.

Ülkeler	**Kişi Sayısı**
Rus	
Japon	25
Alman	

Rus turistlerin Alman turistlere oranı $\frac{8}{3}$ ve Alman turistlerin Japon turistlere oranı $\frac{3}{5}$ olduğuna göre tablodaki boşlukları doldurunuz.

ProblemDede

8. Bir sınıfta kız öğrencilerin $\frac{1}{9}$'i gözlüklü, erkek öğrencilerin $\frac{4}{7}$'ü gözlüksüz ve kız öğrenciler sınıfın $\frac{9}{16}$'u dur. Sınıfta 14 erkek öğrenci olduğuna göre aşağıdaki tabloyu doldurunuz.

	Gözlüklüler	Gözlüksüzler
Kızlar		
Erkekler		

ProblemDede

9. Bir alışverişte alınan eşyaların fiyatlarının birbirlerine oranları şöyledir:



Pantalonun fiyatının gömleğin fiyatına oranı $\frac{3}{2}$

Şapkanın fiyatının ayakkabının fiyatına oranı $\frac{1}{3}$

Montun fiyatının gömleğin fiyatına oranı $\frac{5}{2}$

Gömleğin fiyatının ayakkabının fiyatına oranı $\frac{1}{2}$

Bu alışverişte toplam 4600 TL harcandığına göre her bir eşyanın fiyatını bulunuz.

ProblemDede

10. Aşağıda verilen oran eşitliklerinde **x** ile belirtilen sayıları bulunuz.

a. $\frac{8}{5} = \frac{40}{x}$

b. $\frac{12}{15} = \frac{4}{x}$

c. $\frac{3}{4} = \frac{x}{36}$

ç. $\frac{3}{2} = \frac{18}{x}$

d. $\frac{x}{4} = \frac{45}{36}$

e. $\frac{2}{11} = \frac{20}{x}$

f. $\frac{15}{14} = \frac{x}{7}$

g. $\frac{6}{8} = \frac{x}{20}$

ğ. $\frac{10}{40} = \frac{x}{140}$

h. $\frac{34}{30} = \frac{x}{15}$

ı. $\frac{0,5}{1000} = \frac{x}{10}$

i. $\frac{x}{0,56} = \frac{0,24}{0,07}$

ProblemDede

11. Balıkçı teknelerinin takibini yapmak ve güvenliğini sağlamak için bilgisayara bağlı bir dürbün sistemi kullanılmaktadır. Bu sistem dürbünde görülen balıkçı teknelerini ve aralarındaki uzaklıkları aşağıdaki gibi ekrana yansıtmıştır.

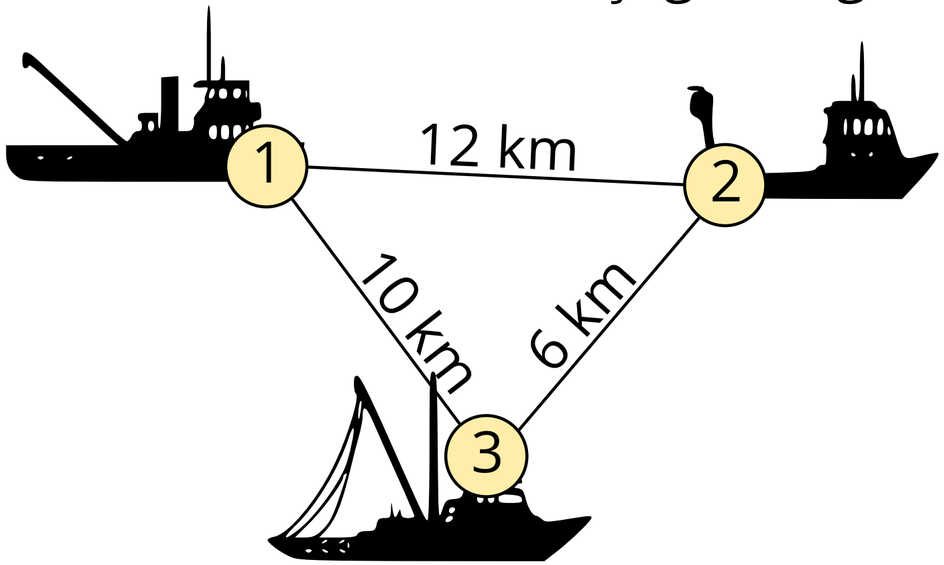

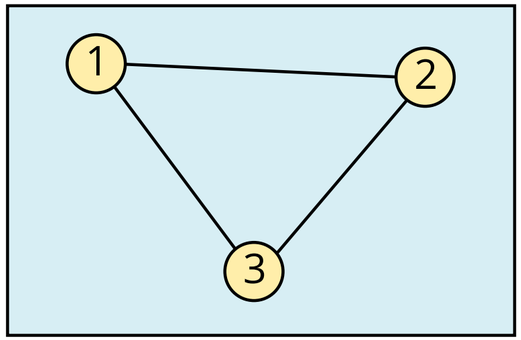

Harita 1

Ölçek : $\frac{1}{100\,000}$

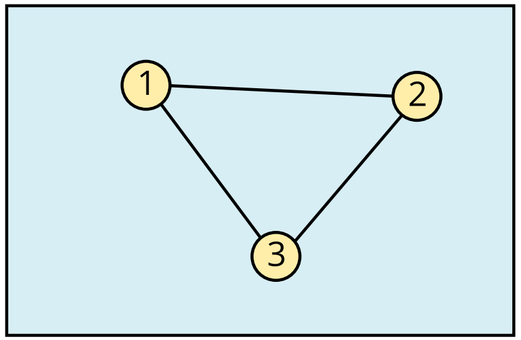

Harita 2

Ölçek : $\frac{1}{200\,000}$

Ayrıca sistem bu teknelerin konumlarını ölçekleri farklı iki harita üzerinde sağdaki gibi göstermiştir. Buna göre 1 ve 2 numaraları balıkçı teknelerinin Harita 1'deki birbirine olan uzaklığı ile Harita 2'deki birbirine olan uzaklıkları toplamı kaç santimetredir?
(1 km = 1000 m, 1 m = 100 cm)

ProblemDede

12. Bir balıkçı, yakaladığı palamut ve lüferleri her kasada 8 adet balık olacak şekilde farklı tür balıkları karıştırmadan toplam 24 adet kasaya yerleştirilmiştir. Palamut bulunan kasaların sayısının, lüfer bulunan kasaların sayısına oranı $\frac{5}{7}$ olduğuna göre, balıkçı kaç adet lüfer yakalamıştır?

YN-13

ProblemDede

13. Afrika ülkelerinden Moritanya ve Cezayir arasındaki sınır doğrusaldır. Ali, bu sınırın uzunluğunu aşağıdaki 1 : 20 000 000 ölçekli haritada cetvel ile 2,3 cm olarak ölçmüştür.

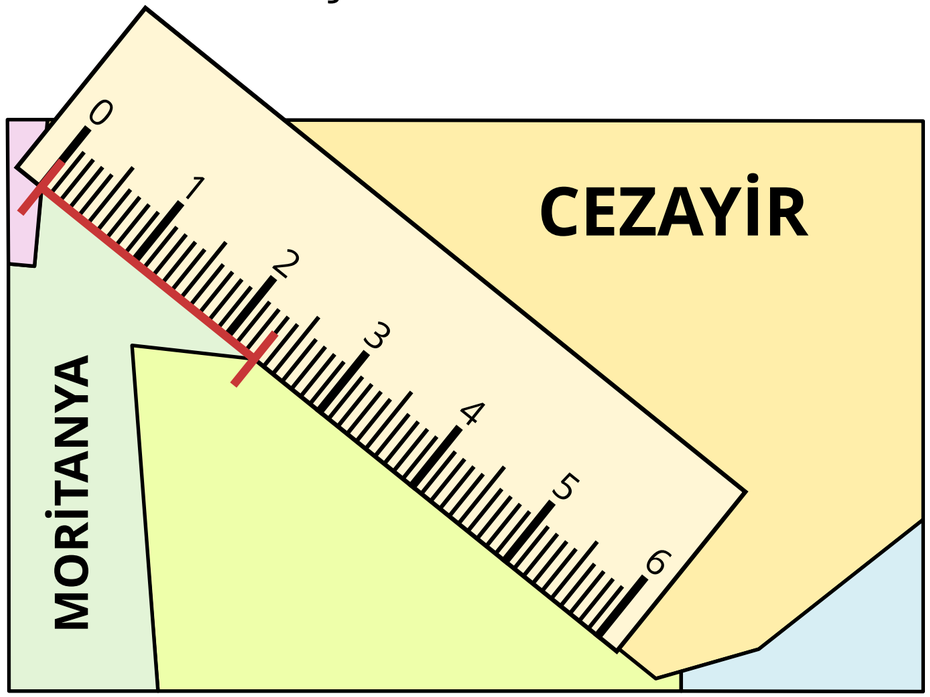

Buna göre bu iki ülke arasındaki sınırın gerçek uzunluğu kaç kilometredir? (1 km = 1000 m, 1 m = 100 cm)

ProblemDede