YÜZDELER

ProblemDede

M.7.1.5.2. Bir çokluğu diğer bir çokluğun yüzdesi olarak hesaplar.

Örneğin 20 sayısı 50'nin %40'ıdır.

ProblemDede

1. 200 metre uzunluğunda bir top kumaşın 80 metresi satılıyor. Satılan kumaşın, tüm kumaşın yüzde kaçı olduğunu bulunuz.



ProblemDede

BİLGİ

Yöntem 1 : Bir çokluğu diğer bir çokluğun yüzdesi olarak hesaplamak için çokluklar birbirine bölünebilir.

a, b'nin yüzde kaçıdır? $\frac{a}{b}$

Payda (b) mümkünse 100'e genişletilebilir yada sadeleştirilebilir.

$a \,|\, b$

Veya standart bölme yapılarak virgülden sonraki iki basamağa bakılabilir.

Yöntem 2 : Orantı kullanarakta sonuca ulaşabiliriz.

a, b'nin yüzde kaçıdır?

Bütün	**Parça**
b	a
100	?

$b \,.\, ? = 100 \,.\, a$ $\qquad ? = \frac{a \,.100}{b}$

ProblemDede

2. Aşağıdaki soruların çözümlerini bulunuz.

a. 20 sayısı 50'nin yüzde kaçıdır?

b. 12 sayısı 60'ın yüzde kaçıdır?

c. 75 sayısı 25'in yüzde kaçıdır?

ç. 90 sayısı 50'nin yüzde kaçıdır?

d. 0,2 sayısı 120'nin yüzde kaçıdır?

e. 2,5 sayısı 52,5'nin yüzde kaçıdır?

ProblemDede

3. Aşağıdaki soruların çözümlerini bulunuz.

a. 720'nin %x'i 36 ise x kaçtır?

b. 160'ın %x'i 16 ise x kaçtır?

c. 2400'ın %x'i 72 ise x kaçtır?

ç. 40'ın %x'i 33 ise x kaçtır?

d. 17'nin %x'i 204 ise a kaçtır?

e. 1,2'nin %x'i 0,3 ise x kaçtır?

ProblemDede

4. 300 TL'lik bir üründen 24 TL KDV alındığına göre bu ürüne uygulanan KDV oranının yüzde kaç olduğunu bulalım.

K	D	V
a	e	e
t	ğ	r
m	e	g
a	r	i
		s
		i

ProblemDede

5. Ayhan'ın arabası, Muğla'dan Denizli'ye giderken 120 km'lik yolun 30. km'sinde arızalanır. Buna göre aracın arızalanmadan önce yolun yüzde kaçını gittiğini bulunuz.

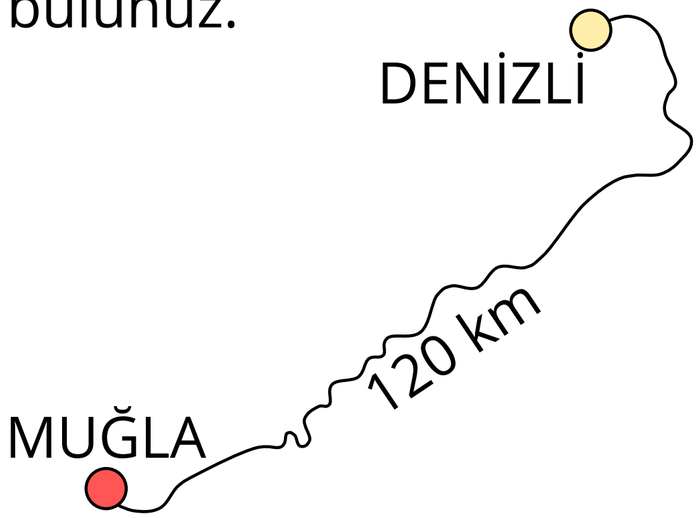

ProblemDede

6. Bir kasadaki 120 elmanın 15'i çürümüştür. Buna göre;

a. Elmaların yüzde kaçı çürüktür?

b. Elmaların yüzde kaçı sağlamdır?



ProblemDede

7. Bir okulda görev yapan erkek öğretmenlerin ağırlıkları ortalaması 80 kg, kadın öğretmenlerin ağırlık ortalaması 64,8 kg dır. Buna göre okuldaki bayan öğretmenlerin ağırlık ortalaması erkek öğretmenlerin ağırlık ortalamasının yüzde kaçıdır?

ProblemDede

8. 58,32 kg kuru kayısı kurutulmadan önce (yaş haldeyken) 72,9 kg dır. Buna göre yaş kayısı kuru kayısının yüzde kaçıdır?



ProblemDede