YÜZDELER

ProblemDede

M.7.1.5.3. Bir çokluğu belirli bir yüzde ile arttırmaya veya azaltmaya yönelik hesaplamalar yapar.

ProblemDede

1. Satış fiyatı 45 lira olan bir kitap %20 indirime girdiğinde, indirimli satış fiyatının kaç lira olacağını bulunuz.

• %20

ProblemDede

BİLGİ

Bir sayıyı belirli bir yüzde ile arttırmak veya azaltmak iki farklı şekilde düşünülebilir.

Yöntem 1: 200 sayısını %25 artırmak veya azlatmak için 200'ün %25'ini bulup 200'e ekleyebilir veya çıkarabiliriz.

		Bütün	**Parça**		
200'ün %25'i	x2	100 → 200	25 → ?	x2	? = 50

%25 arttırmak için 200 + 50 = 250
%25 azaltmak için 200 - 50 = 150

Yöntem 2: 200 sayısını %25 artırmak yerine %100 + %25 ten %125 ini bulabiliriz.
200 sayısını %25 azaltmak yerine %100 - %25 ten %75 ini bulabiliriz.

		Bütün	**Parça**		
200'ün %125'i	x2	100 → 200	125 → ?	x2	? = 250

		Bütün	**Parça**		
200'ün %75'i	x2	100 → 200	75 → ?	x2	? = 150

ProblemDede

2. Aşağıdaki soruların çözümlerini bulunuz.

a. 320'nin %25 fazlası kaçtır?

b. 55'in %2 fazlası kaçtır?

c. 124'ün %10 fazlası kaçtır?

ç. 48'in %5 eksiği kaçtır?

d. 48,8'in %5 eksiği kaçtır?

e. 60,5'ün %12 eksiği kaçtır?

ProblemDede

3. Aşağıdaki soruların çözümlerini bulunuz.

a. 10’un %7,5 fazlası kaçtır?

b. 120’nin %0,5 fazlası kaçtır?

c. 75’in %5,2 eksiği kaçtır?

ç. 16,25’ın %80,8 eksiği kaçtır?

ProblemDede

4. Bir mağaza 80 TL'ye aldığı bir pantolonun fiyatını %15 arttırarak sattığında pantolonun fiyatının kaç TL olacağını bulunuz.



ProblemDede

5. Bir cins yaş üzüm kurutulunca kütlesinin %36'sını kaybetmektedir. Buna göre 240 kg yaş üzümden kaç kg kuru üzüm elde edilebileceğini bulunuz.



ProblemDede

6. Samsun ile İstanbul arası 120 TL olan otobüs biletinin fiyatı %4,5 arttırıldığında biletin yeni fiyatının kaç TL olacağını bulunuz.

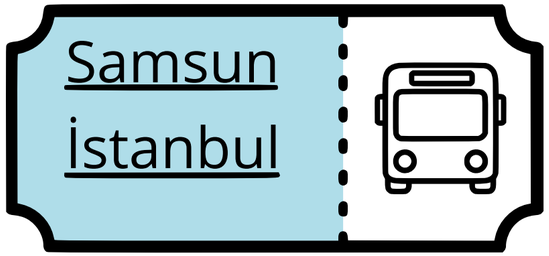

ProblemDede

7. Maliyeti 14,4 TL olan bir ürünü %12,5 kârla satan bir mağazanın ürünü kaç TL'ye satacağını bulunuz.

ProblemDede

8. Bir mağaza sahibi 120 TL'ye aldığı bir gömleği % 20 zamlı olarak satıyor. Daha sonra zamlı fiyatı üzerinden % 20 indirim yapıyor. Gömleğin son satış fiyatı kaç TL dir?

ProblemDede

9. Bir ayakkabı mağazasında 60 TL olan bir ayakkabı modeline önce %12,5 zam uygulanmıştır. Ayakkabıya olan talebin azaldığını gören mağaza yetkilisi ayakkabının zamlı fiyatına %12,5 indirim yapıyor. İndirim sonucunda ayakkabının ilk satış fiyatı değişir mi? bulunuz.



ProblemDede

10. Aşağıda Ezgi'nin perspektif kullanarak çizdiği bir resim verilmiştir.

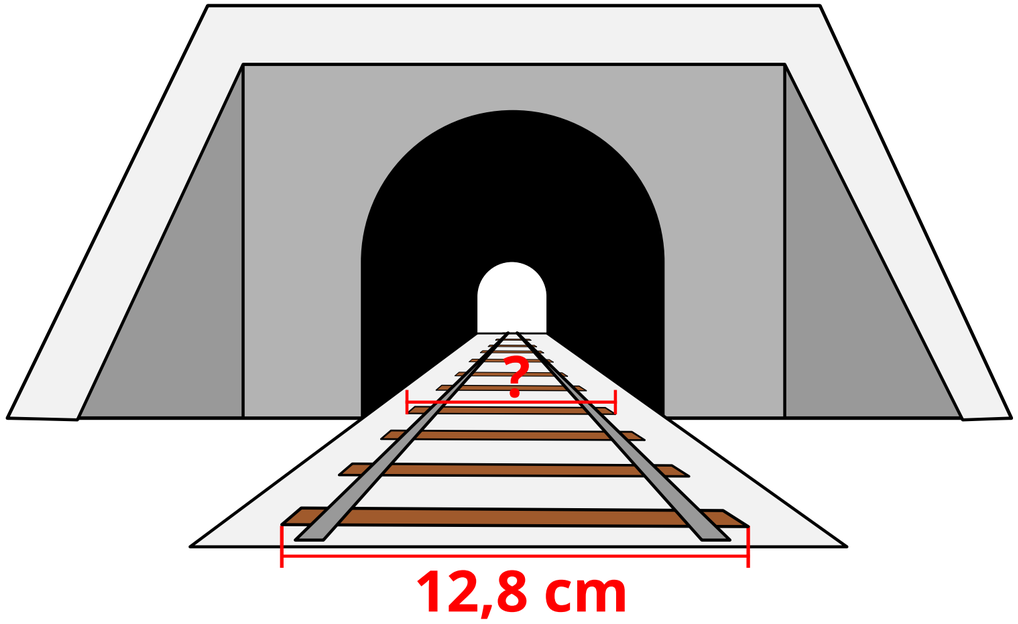

Resimde görülen en uzun tahtanın boyu 12,8 cm olup tünele yaklaştıkça her tahtanın boyu, bir önceki tahtanın boyuna göre % 25 oranında azalmaktadır. Buna göre ön sıradan dördüncü tahtanın boyu kaç santimetredir?

YN-11

ProblemDede

11. Ülkemizde Karayolları Genel Müdürlüğü'nün kara yollarındaki otomobiller için belirlediği hız sınırları aşağıdaki gibidir.

Yerleşim Yeri İçindeki Tüm Yollar	**Yerleşim Yeri Dışındaki Tüm Yollar**		
50 km/sa	**Çift Yön**	**Bölünmüş**	**Otoyol**
	90 km/sa	110 km/sa	120 km/sa

Kara yollarında otomobil sürücülerine belirlenen hız sınırlarını

- % 10'dan % 30 a kadar aşılması durumunda 288 TL,
- % 30'dan % 50 ye kadar aşılması durumunda 598 TL,
- % 50 ve üzerinde aşılması durumunda 1228 TL

para cezası uygulanacağı belirtilmektedir. Kara yolunda otomobille giderken hız denetimine giren bir sürücüye 598 TL para cezası uygulanmıştır. Buna göre bu sürücünün hız denetiminde tespit edilen hızı km/sa cinsinden aşağıdakilerden hangisi olamaz?

A) 72 **B)** 115 **C)** 145 **D)** 166

ProblemDede