YÜZDELER

ProblemDede

M.7.1.5.4. Yüzde ile ilgili problemleri çözer.

ProblemDede

1. Deniz, bayramda topladığı 250 TL harçlığın %10'u ile kıyafet, %5'i ile oyuncak alıyor. Geri kalan parasını da bankaya yatırıyor. Deniz her bir harcaması için kaç TL kullanmıştır?

ProblemDede

2. Arzu 120 TL'ye aldığı halıyı 150 TL'ye satıyor. Aynı kâr oranıyla 220 TL'ye satıtığı bir halıyı kaç TL'ye almıştır?



ProblemDede

3. KDV'li satış fiyatı 1500 lira olan bir çamaşır makinesi, KDV yüzdesi kadar indirime giriyor. KDV yüzdesi %18 olduğuna göre çamaşır makinesinin indirimli satış fiyatındaki KDV kaç TL'dir?



ProblemDede

4. Kredi kartlarının aylık ödeme tutarının son ödeme tarihine kadar ödenmezse ödenmeyen tutar için aylık %2,75 gecikme faizi uygulanıyor. Ali Bey kredi kartının o ay ödemesi gereken 655 liranın 325 lirasını ödüyor. Geriye kalan borcunu ise bir sonraki ay ödemek istiyor. Buna göre Ali Bey'in kaç lira gecikme faizi ödeyeceğini bulunuz.

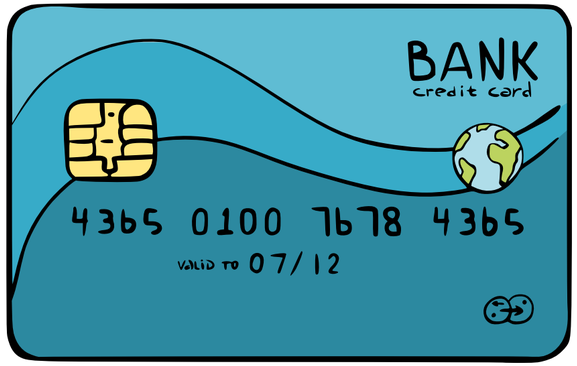

ProblemDede

5. Maaşı %30 artırıldığında 3600 TL alan Ali'nin artıştan önceki maaşının kaç TL olduğunu bulunuz.



ProblemDede

6. Yapılan araştırmada İstanbul'da bir günde üretilen 15 375 000 ekmeğin %6'sı çöpe atılarak israf ediliyor. 24 günlük ekmek tasarrufu ile bir huzurevi yapılabiliyor. 1 ekmek 10,25 TL olduğuna göre yapılacak olan bir huzurevinin maliyeti kaç TL olur?

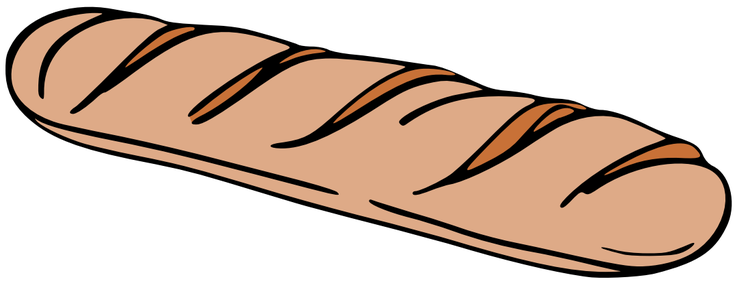

ProblemDede

7. 10 000 TL'si olan Aysun, parasını değerlendirmek için iki farklı bankadan teklif almıştır.

A Bankası	**B Bankası**
Yıllık %3,25 kazanç + 1000 TL ek ödeme (1 kez verilecektir)	Yıllık %13,1 kazanç

Buna göre 1 yıllık anlaşma yapacak olan Aysun, hangi bankanın teklifini tercih etmelidir? Neden?

ProblemDede

8. Bir apartmanda oturan herkes gazete okumaktadır. Bu kişilerin %25'i A gazetesini, %40'ı B gazetesini okuyor. Geriye kalan 7 kişi ise C gazetesini okuyor. Buna göre bu apartmanda A gazetesini okuyan kaç kişi vardır?



ProblemDede

9. Aşağıdaki tabloda bazı ürünlere ait değişik ödeme seçenkleri verilmiştir.

Ürünler	**Satış Fiyatı**	**Peşin Fiyatı**	**Taksitli Fiyatı**
TV	1400 TL	1260 TL	1750 TL
Bilgisayar	2000 TL	1600 TL	2500 TL
Cep Telefonu	2400 TL	2040 TL	3000 TL

Buna göre;

a. Bilgisayarın peşin satışında % kaç indirim yapıldığını hesaplayınız.

b. Peşin satışlardaki indirim yüzdesini büyükten küçüğe doğru sıralayınız.

c. Bilgisayarı taksitle alan kişi, satış fiyatı üzerinden % kaç daha fazla ödeme yapar?

ProblemDede

10. 256 TL'ye mâl edilen bir ceket %25 kârla satılmaktadır. Sezon sonu yaklaştığından ceketin satış fiyatı üzerinden %18 indirim yapılmıştır. Ceketin son satış fiyatını ve bu satıştan elde edilen kârın yüzdesini bulunuz.

ProblemDede

11. Bir iş yerinde çalışanların 0,36'sı öğle yemeklerini evlerinden getirken, % 42'si iş yerinin kafeteryasında yiyor. Geriye kalanlar ise öğlenleri yemek yemiyor. Öğlenleri yemek yemeyen 12 çalışan olduğuna göre iş yerinin kafeteryasında yemek yiyenlerin sayısını bulunuz.

ProblemDede

12. Bir sınava giren öğrencilerin % 83'ü başarılı olmuştur. Sınava giren öğrencilerin % 40'ı erkektir. Erkek öğrenciler arasında başarı oranı % 80 olduğuna göre kız öğrenciler arasındaki başarı oranı yüzde kaçtır?



ProblemDede

13. Max Ringelmann, yaptığı deneyler sonucunda bir işi yapmaya çalışan kişi sayısı arttıkça yapılan iş için sarf edilen performansın düştüğünü göstermiştir.

1 Kişi	$\longrightarrow$	100 birim iş
2 Kişi	$\longrightarrow$	186 birim iş (200)
3 Kişi	$\longrightarrow$	258 birim iş (300)
10 Kişi	$\longrightarrow$	370 birim iş (1000)

Max Ringelmann, bir kişinin yaptığı işe yeni bir kişi katıldığında toplam performansın % 7, yeni iki kişi katıldığında ise toplam performansın % 14 düştüğünü, yani işe yeni katılan her kişi için toplam performansın % 7 düştüğünü tespit etmiştir. Buna göre normalde her biri günlük 100 birim iş yapabilen 30 kişi 6, 7, 8 ve 9 kişilik gruplara ayrılarak çalıştıklarında kaç kişilik grubun günlük toplam performansı daha yüksek olur?

ProblemDede

14. Kaan farklı indirme hızlarına sahip 2 farklı bilgisayarda boyutları eşit olan birer dosyayı aynı anda indirmeye başlıyor.

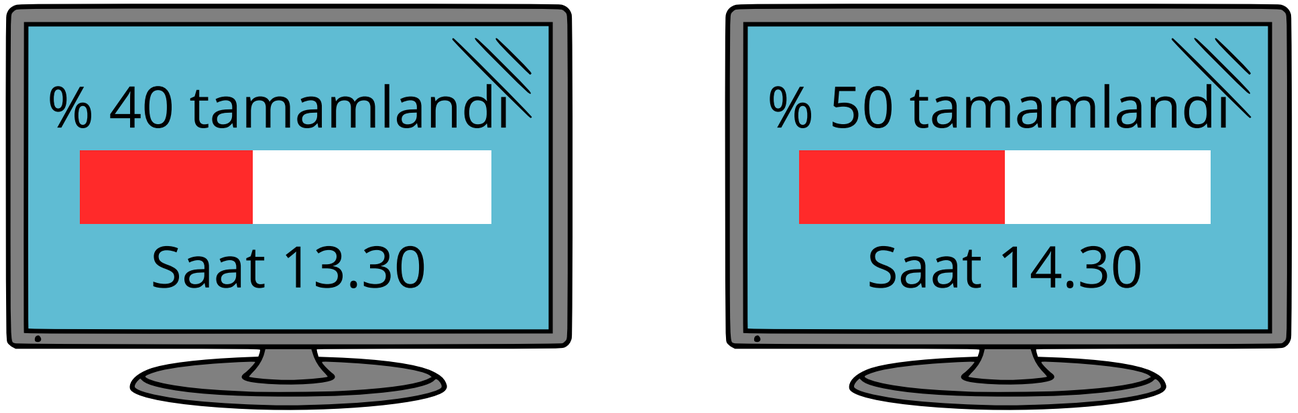

1. Bilgisayar 2. Bilgisayar

Yukarıda bilgisayarların bu dosyaları farklı zamanlardaki indirme miktarları verilmiştir. Bu bilgisayarlar dosyaları sabit hızla indirmeye devam etmişlerdir. 1. Bilgisayar dosyanın tamamını 5 saatte indirdiğine göre 2. Bilgisayar dosyanın tamamını saat kaçta indirmiştir?

ProblemDede

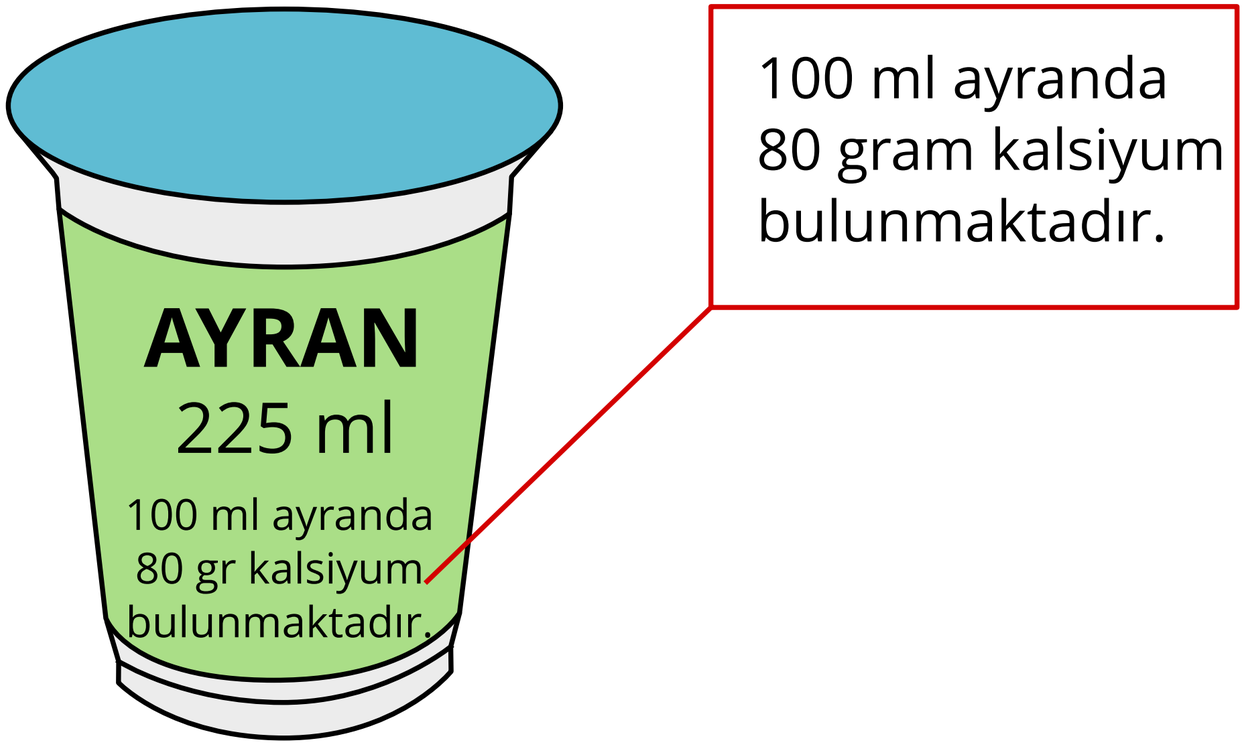

15. Gülçin'e doktoru kalsiyum eksikliği olduğunu ve ayran içmesini, içeceği 225 mililitrelik bir kutu ayran ile günlük kalsiyum ihtiyacının % 18 ini karşılayabileceğini söylemiştir. Buna göre Gülçin'in 225 mililitrelik bir kutu ayranı içtikten sonra günlük kalsiyum ihtiyacının tamamını karşılamak için alması gereken kalsiyum miktarı kaç gramdır?

YN-16

ProblemDede

16. Zeynep bir hediyelik eşya dükkanından görselde verilen matruşka bebekleri satın almıştır. Eve geldiğinde bu bebeklerin boylarını ölçüp bebekleri büyükten küçüğe doğru sıralamış ve 2. bebekten başlayarak her bebeğin boyunun solundaki bebeğin boyunun yüzde kaçına eşit olduğunu aşağıdaki gibi göstermiştir.



1	2	3	4	5	6
	%80'i	%75'i	%80'i	%75'i	%50'si

Zeynep 3. bebeğin boyunu 30 cm olarak ölçtüğüne göre aşağıdakilerden hangisi yanlıştır?

A) 5. bebeğin boyunu 18 cm olarak ölçmüştür.
B) 1. ve 2. bebeğin boyları toplamını 90 cm olarak ölçmüştür.
C) 2. bebeğin boyunu 45 cm olarak ölçmüştür.
D) 6. bebeğin boyunu 9 cm olarak ölçmüştür.

ProblemDede